GOBIERNO REGIONAL DE LAMBAYEQUE

GERENCIA REGIONAL DE EDUCACIÓN

DIAGNÓSTICO INTEGRAL DE APRENDIZAJES

MATEMÁTICA

1º
Primaria

PROVINCIA	
NOMBRES Y APELLIDOS	
I.E.	
SECCIÓN	

INDICACIONES:

¿CÓMO MARCAR TUS RESPUESTAS?

- Escuchar con atención las indicaciones de tu profesora o profesor.
- Marca con una “X” la respuesta que creas que es la correcta, como en el ejemplo:

- Encierra en un círculo si la pregunta lo solicita, como en el ejemplo:

- Usa el lápiz para marcar la respuesta; y color en donde se indique.

¡Haz tu mejor esfuerzo!

1

Daniel cosechó tres canastas de mangos. **Marca con una X la canasta** que tiene **muchos mangos**





A



B



C

2

En la reserva de Chaparrí, **hay 5 pavas aliblancas** descansando en la rama de un árbol de algarrobo. **De pronto, 2 pavas aliblancas se asustan y se van volando.**



Ahora responde **¿Cuántas pavas aliblancas quedaron en la rama?**

2	5	3
A	B	c

3 Ricardo y Maricielo quieren saber ¿Cuántos lápices tienen los dos juntos? Observa la imagen

8 A

9 B

10 C

Observa los maracuyás que utilizaron los niños y las niñas de primer grado para preparar jugo.



A partir del problema planteado, responde

4 **¿Cuántos maracuyás utilizaron SOLO los niños?**

A



B



C

Los niños de primer grado hacen una fila para entrar al cine, observa y responde.

5 **¿Quién es el último de la fila? Marca con X la respuesta.**

SUSI

A

JULIO

B

MARÍA

C

6 Observa la secuencia de lápices y marca ¿Qué lápiz debe ir al final?





A

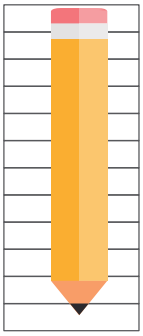

B



C

7 Observa los siguientes bloques. **¿Qué número falta en el bloque?**

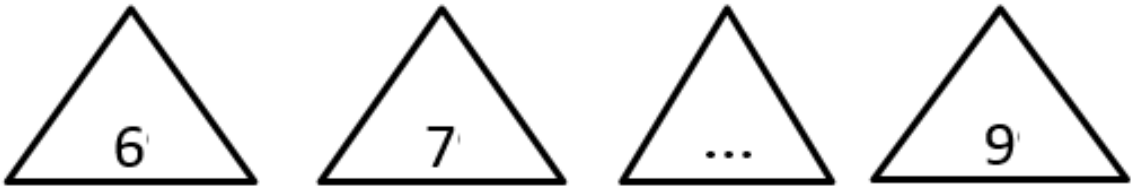

A **10**

B **8**

C **5**

8 Observa la imagen ¿Qué juguete continúa en la secuencia?



A

B

C

9 ¿Qué figuras geométricas continúan en la secuencia?

A B C

10 Juan utiliza la balanza para pesar los siguientes objetos

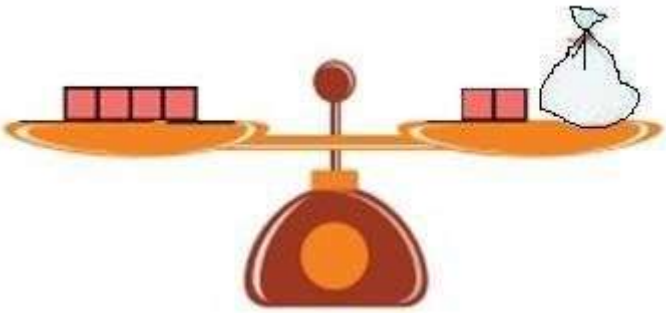

Si la balanza tiene los dos platillos con pesos iguales.

¿Cuántos cubitos hay en la bolsa?

A 3 cubitos

B 6 cubitos

C 2 cubitos

11 Carlos desea ordenar las herramientas que usó su papá en la cosecha de caña.

¿Cuál es la herramienta más grande?

A

B

C

Observa la imagen. Luego, responde a las preguntas



12 ¿Qué objeto está encima de la silla? Encierra la respuesta.

A

B

C

13 ¿Observa y marca el grupo de los objetos que tienen forma rectangular?

A

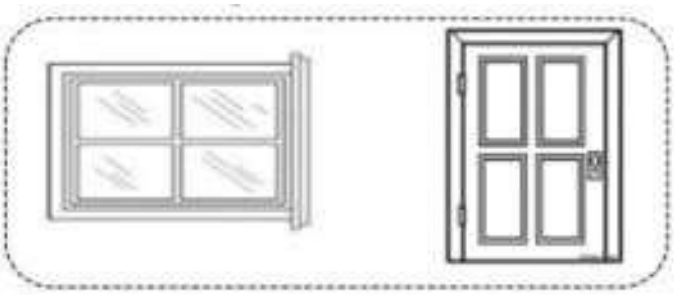

B

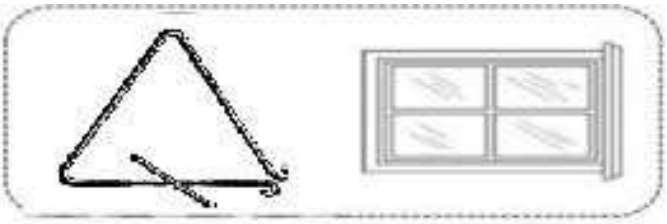

C

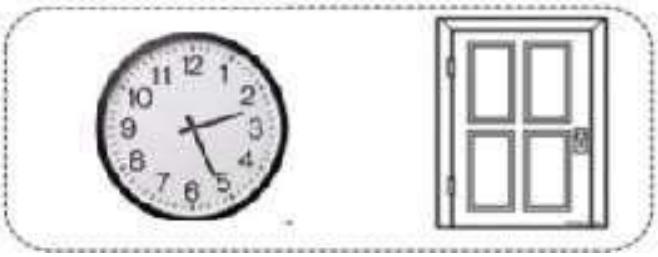

14 Durante la mañana, la mariposa vuela hacia la flor:



¿Cuál es el recorrido que debe seguir la mariposa para llegar a la flor?

A → → ↑ ↑

B → → ↓ ↓

C → ↓ → ↑

15 José sale todas las mañanas siguiendo este camino

→ → → → ↑

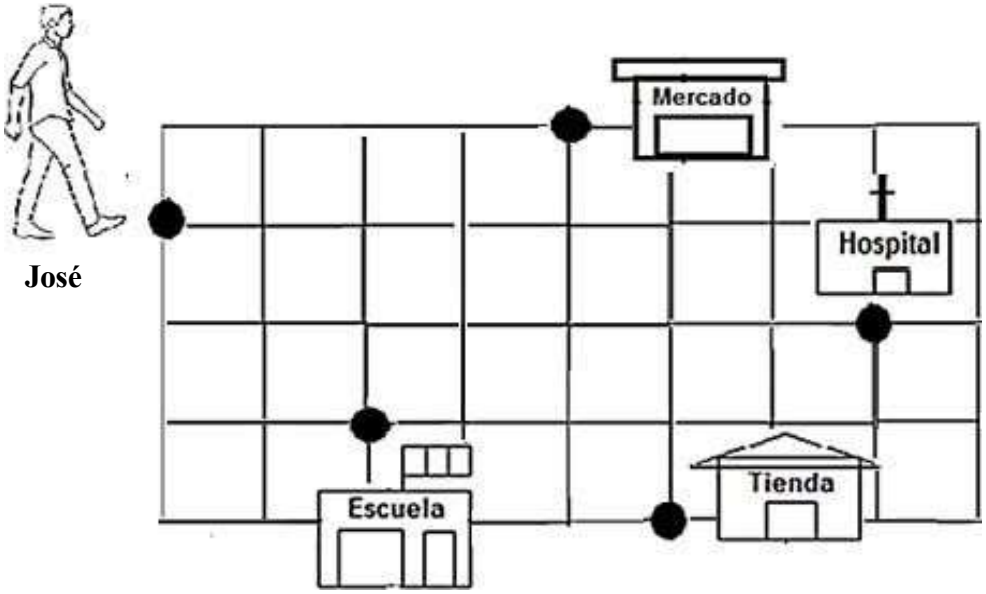

A Hospital **B** Mercado **C** Tienda

16 Observa el gráfico: ¿Quién tiene más bloques lógicos?

CANTIDAD DE BLOQUES LÓGICOS

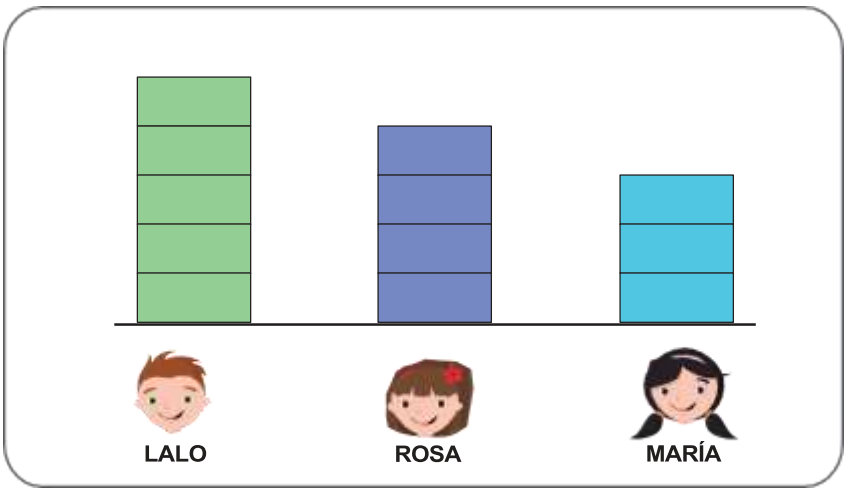

ROSA

LALO

MARÍA

A B C

17 Lee la tabla y responde: ¿Cuántas prendas de vestir son azules?

Prendas de vestir	Colores	
	Azul	Negro
Pantalones	2	5
Camisas	6	1

A 2 B 6 C 8

18 Observa la siguiente información acerca de los juguetes preferidos por los niños:

Juguetes	Conteo
cohete	I I I I
automóvil	I I I I I I
pelota	I I I I I I I
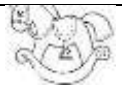 caballito	I I I I I

¿Cuál es el juguete preferido por los niños?

A Caballito.

B Pelota.

C Automovil.

19 Observa el grafico de barras y marca ¿Cuántas tijeras hay

A **3** B **5** C **6**

20 Mariano guarda sus juguetes dentro de esta bolsa

Si Mariano saca un juguete sin mirar dentro de la bolsa.

¿Qué es lo que puede suceder?

A Siempre sacará una pelota.

B Nunca sacará un trompo.

C A veces sacará una pelota.

DIA

Diagnóstico Integral de Aprendizajes

GOBIERNO REGIONAL DE LAMBAYEQUE

GERENCIA REGIONAL DE EDUCACIÓN