GOBIERNO REGIONAL DE LAMBAYEQUE

GERENCIA REGIONAL DE EDUCACIÓN

DIAGNÓSTICO INTEGRAL DE APRENDIZAJES

MATEMÁTICA

2°
Primaria

DISTRITO	
NOMBRES y APELLIDOS	
I.E.	
SECCIÓN	

¿Cómo responder las preguntas del cuadernillo?

- En este cuadernillo, encontrarás preguntas en las que debes marcar con una “X” solo una respuesta.
- También encontrarás preguntas en las que tienes que realizar tus procedimientos y escribir tu respuesta.
- Hazlo de forma clara y ordenada.
- Usa solo lápiz para responder las preguntas.

Ejemplo:

1 Tenía 3 carritos. Luego, mi tío me regaló 2 carritos.
¿Cuántos carritos tengo en total?

A 2 carritos.

B 3 carritos.

X 5 carritos.

D 4 carritos.

Tienes 60 minutos
para resolver la prueba de matemática

Ten en cuenta que:

• Debes resolver tu cuadernillo en silencio y sin mirar las respuestas de tus compañeros.
• Si tienes dudas en alguna pregunta, puedes pasar a la siguiente. Luego, si todavía tienes tiempo, puedes regresar a las preguntas que no has respondido.

¡Tú puedes!

1 María es una niña que vive en Monsefú, ella elaboró 5 canastitas de carrizo y su papá le regaló 3 canastitas más ¿Cuántas canastitas de carrizo tiene María en total?

A 7

B 8

C 9

2 La biblioteca de la Institución Educativa: La Aplicación tiene 15 cuentos. Si se prestan 7 cuentos a los estudiantes para que los lleven a leer a sus casas ¿cuántos cuentos quedan en la biblioteca?

A 6

B 7

C 8

3 En el aula de Segundo Grado hay 11 niños y 8 niñas.

¿Cuántos estudiantes hay en total en el aula de Segundo Grado?

A 19

B 3

C 9



4 En cada mesa hay 4 cuadernos, tal como se muestra en la figura.

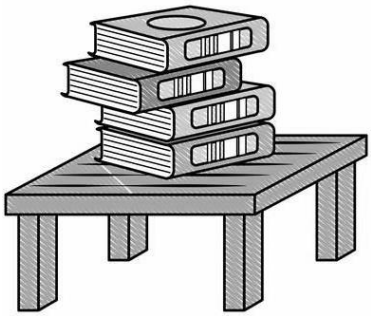

Si hay 5 mesas, ¿cuántos cuadernos hay en total?

A 15

B 20

C 25

5 Luis, un estudiante de la institución Educativa: “Miguel Muro Zapata” compra una bolsita con trocitos de caña de azúcar. Si él comió 8 trocitos y luego su amigo Fernando le regaló 5 trocitos más.

¿Cuál afirmación es correcta para dar solución al problema?

A Primero, resto 30 - 8; y al resultado le sumo 5.

B Primero, sumo 8 + 5; y al resultado le sumo 30.

C Primero, resto 30 - 8; y al resultado le resto 5.

6 Pascual es un niño de Chongoyape que ha recibido como regalo una chalina, tal como se muestra en la figura.

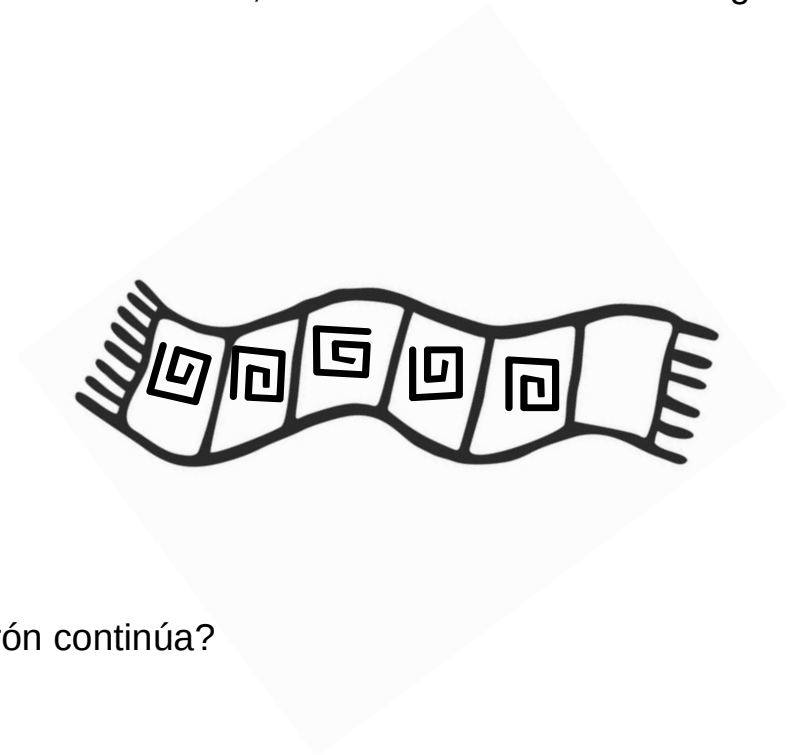

¿Qué patrón continúa?

A

B

C

7 Maritza es artesana de Huaca Rajada y fabrica vasijas con distintos diseños.

A continuación, te mostramos el diseño de una de sus vasijas.

¿Cuántas figuras continúan según el diseño?

A 2

B 3

C 4

8 Observa la siguiente secuencia:



¿Cuál es el número que continúa?

A 22

B 25

C 30

9 En uno de los puestos de venta de King Kong en la Av. Francisco Bolognesi de Chiclayo, 2 alfajores cuestan lo mismo que 6 suspiros, cómo se muestra en la imagen.

Si Ana tiene 12 suspiros y los cambia por alfajores manteniendo la misma equivalencia ¿cuántos alfajores recibirá?

A 4

B 3

C 2

10 En el mercado Modelo de Chiclayo, hay una florería, en la que se observa la siguiente secuencia de flores:

3	6	12	?

¿Cuál es la regla que sigue la secuencia?

A Se suma de 3 en 3

B Se multiplica por 2

C Se resta 3 en 3

11 Observa los siguientes objetos del aula:

¿Cuál de estos objetos tiene forma rectangular?

A La pelota

B La moneda

C La puerta

12 Mira el dibujo que hizo María.

¿Cuántos lados tiene el bloque que usó María para dibujar el techo?

A 2

B 3

C 4

13

En el aula, la profesora Teresa está **<u>delante</u>** de los estudiantes.



¿Dónde están los estudiantes con respecto a la profesora?

A Delante de la profesora

B Al lado izquierdo de la profesora

C Detrás de la profesora

14 En este plano cuadriculado, Nicol y Paola se encuentran en la feria de su pueblo de Cayaltí.

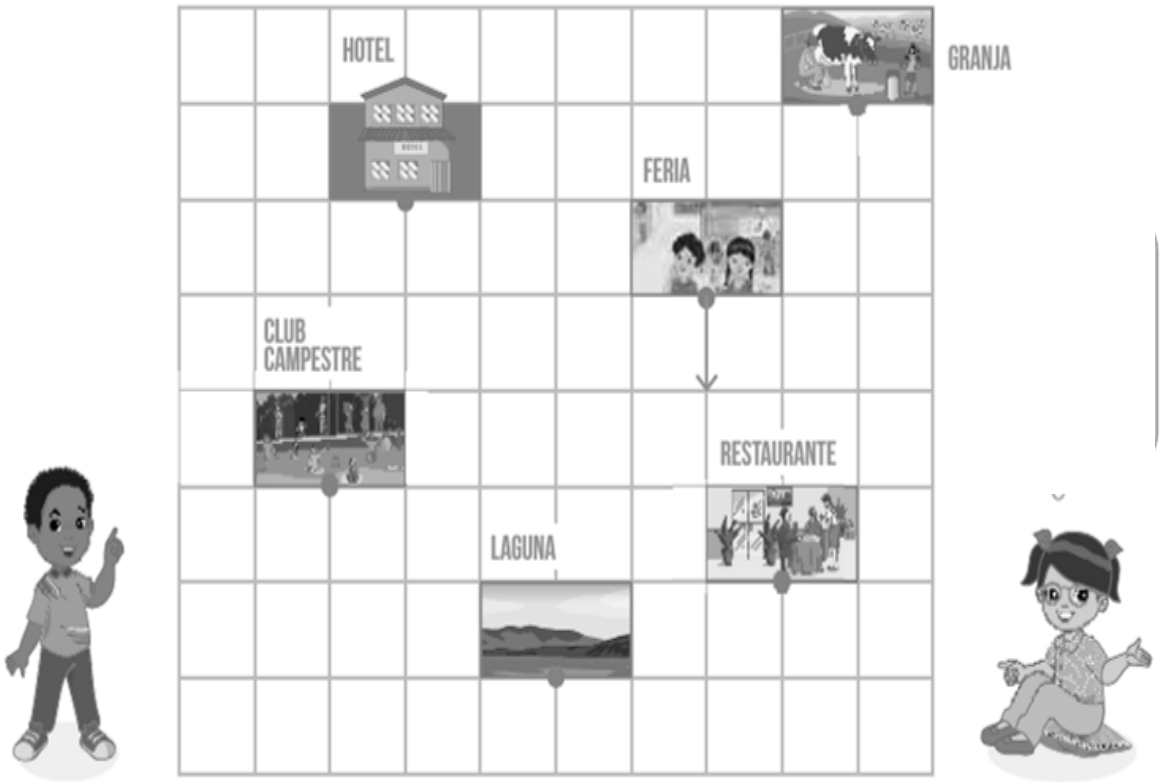

Cada lugar está representado acompañado de un punto (•), que indica su ubicación exacta en el plano. Saliendo de la feria, ellos hacen el siguiente recorrido: una cuadra hacia adelante, tres cuadras a la derecha, dos cuadras hacia adelante y finalmente dos cuadras a la izquierda.

¿A qué lugar llegaron?

A A la laguna

B Al restaurante

C Al club campestre

15 Carlos y Paty han dibujado un tablero de ajedrez y una calculadora.



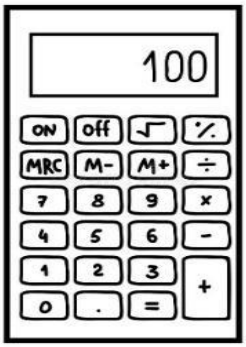

Si sus dibujos los hicieron teniendo en cuenta las figuras geométricas de un cuadrado y un rectángulo, ¿cuál de las siguientes afirmaciones es correcta?

A Ambos tienen cuatro lados

B El cuadrado tiene más lados que el rectángulo

C El rectángulo tiene todos sus lados iguales

16 En la Feria Patronal en honor a San Juan Bautista de Oyotún, la señora Petronila vende las siguientes frutas:

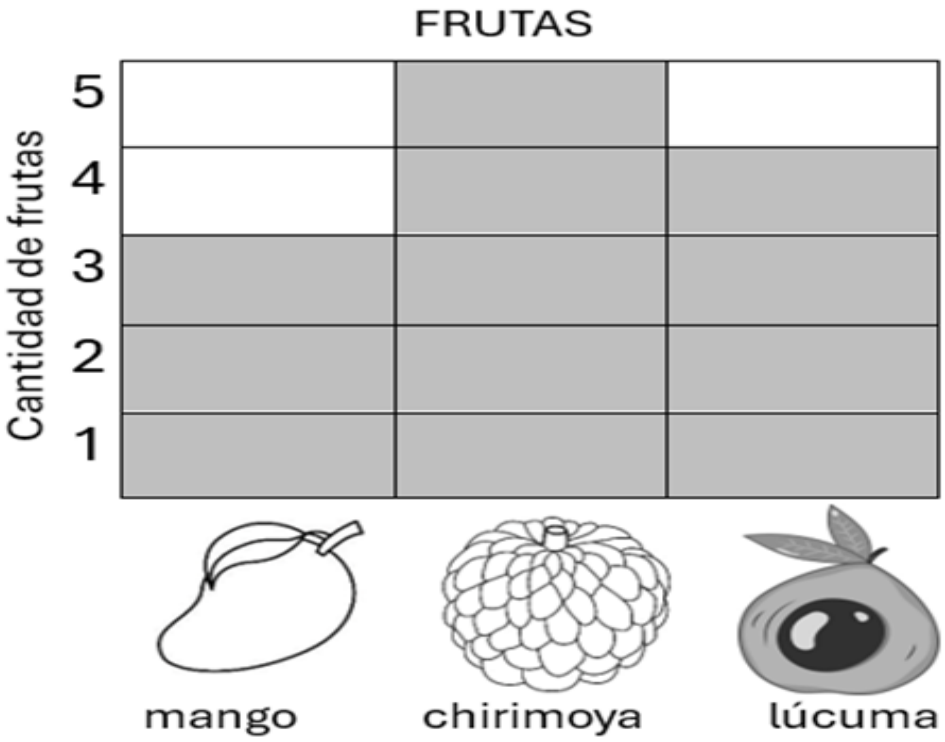

¿Qué fruta vendió más la señora Petronila?

A lúcuma

B mango

C chirimoya

17 Los niños de una Institución Educativa del distrito de Zaña realizaron una encuesta sobre su plato típico favorito:

Plato Típico	Conteo
Frito de chancho	卌 //
Seco de cabrito	卌

¿Cuál es el plato típico que más eligieron?

A Seco de cabrito

B Frito de chancho

C Ambos por igual

18 En la Caleta Santa Rosa, un grupo de estudiantes preguntaron a don Miguel sobre la venta de los pescados de la mañana.Observa la tabla:

Pescado	Cantidad
Caballa	6
Bonito	4
Cachema	2

¿Cuál es el pescado que menos vendió?

A Bonito

B Caballa

C Cachema

19

Mariano es un niño que vive cerca a la playa de Pimentel. Ha juntado conchas de abanico en una caja. Si él, cierra sus ojos y saca una concha de abanico sin mirar, ¿qué tan posible es que salga un pescado?



A Nunca

B A veces

C Siempre

20 En una encuesta a los niños de Segundo grado sobre su deporte preferido, se obtuvieron los siguientes resultados:

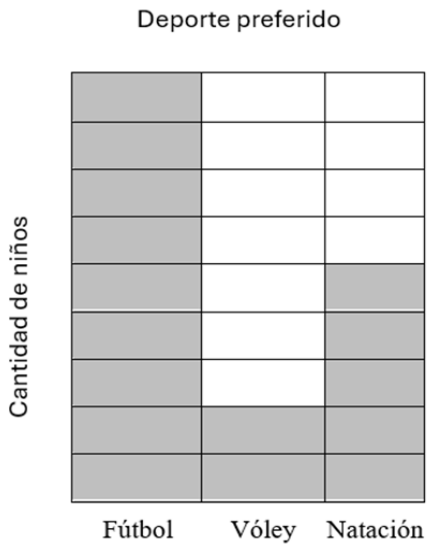

La directora debe comprar materiales para el taller que tiene más niños inscritos. ¿Qué decisión debe tomar teniendo en cuenta los resultados?

A Comprar pelotas de vóley porque es el deporte preferido de todos los niños.

B Comprar pelotas de fútbol porque es el deporte que más prefieren los niños de Segundo grado.

C Comprar lentes de natación porque son pocos niños y se gasta menos dinero.

Diagnóstico Integral de Aprendizajes

GOBIERNO REGIONAL DE LAMBAYEQUE
GERENCIA REGIONAL DE EDUCACIÓN