GOBIERNO REGIONAL DE LAMBAYEQUE

GERENCIA REGIONAL DE EDUCACIÓN

DIAGNÓSTICO INTEGRAL DE APRENDIZAJES

MATEMÁTICA

3°
Primaria

DISTRITO	
NOMBRES Y APELLIDOS	
I.E.	
SECCIÓN	

¿Cómo responder las preguntas del cuadernillo?

- En este cuadernillo, encontrarás preguntas en las que debes marcar con una “X” solo una respuesta.
- También encontrarás preguntas en las que tienes que realizar tus procedimientos y escribir tu respuesta.
- Hazlo de forma clara y ordenada.
- Usa solo lápiz para responder las preguntas.

Ejemplo:

1 Tenía 3 carritos. Luego, mi tío me regaló 2 carritos.
¿Cuántos carritos tengo en total?

A 2 carritos.

B 3 carritos.

X 5 carritos.

D 4 carritos.

Tienes 60 minutos
para resolver la prueba de Matemática

Ten en cuenta que:

• Debes resolver tu cuadernillo en silencio y sin mirar las respuestas de tus compañeros.
• Si tienes dudas en alguna pregunta, puedes pasar a la siguiente. Luego, si todavía tienes tiempo, puedes regresar a las preguntas que no has respondido.

¡Tú puedes!

1 Amelia visita una **feria artesanal mochica en Chiclayo** y desea comprar un poncho tradicional que cuesta **S/61**. Ella tiene **S/38** ahorrados.
¿Cuánto dinero le falta a Amelia para comprar el poncho?

Ahora, marca tu respuesta:

a S/17

b S/23

c S/93

d S/90

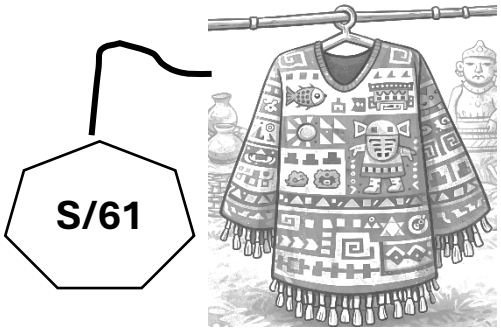

2 Un artesano de Monsefú, llevó 64 cerámicas mochicas a una feria cultural. Durante el día, vendió 33 cerámicas.
¿Cuántas cerámicas mochicas le quedan al artesano?

a 21

b 29

c 31

d 39

3

En la playa de Pimentel y Santa Rosa, las familias se dedican a la pesca artesanal. Después de la jornada, los pescados son agrupados en **bandejas de 10 unidades**, para su venta en el mercado, como se muestra en la imagen.

Sandra es una pescadora artesanal y ha reunido **68 pescados** durante la jornada**. ¿Cuántas bandejas con 10 pescados podrá agrupar Sandra con los 68 pescados?**

a 10 bandejas

b 8 bandejas

c 6 bandejas

d 7 bandejas



4

En un taller de **marinera chiclayana**, hay **23 niñas** y **17 niños**.

¿Cuántas niñas *más que* niños hay en este taller?

a 40 niñas

b 23 niñas

c 17 niñas

d 6 niñas

5 Durante la clase del taller de danzas: “Ritmos con sabor” de **Capote**, los niños realizan un juego, y utilizan **claves** para escribir los números.
En el recuadro observa la lista y la forma como se representan las **decenas y las unidades**.
¿Qué número se debe escribir en el ▢ para completar la lista que falta?

a 14
b 41
c 5
d 2

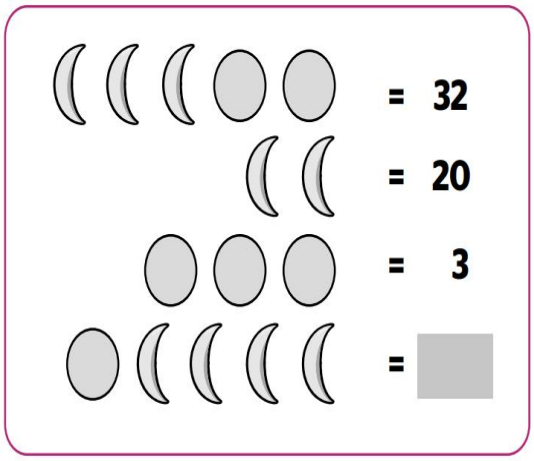

6 Un profesor de la IE. “Santa Rosa” de Pimentel, necesita repartir **43 hojas de papel bond** a sus estudiantes, para una actividad sobre los productos de la región.

El profesor observa los siguientes paquetes de hojas:

Paquete con 34 hojas

Paquete con 40 hojas

Paquete con 50 hojas

Paquete con 30 hojas

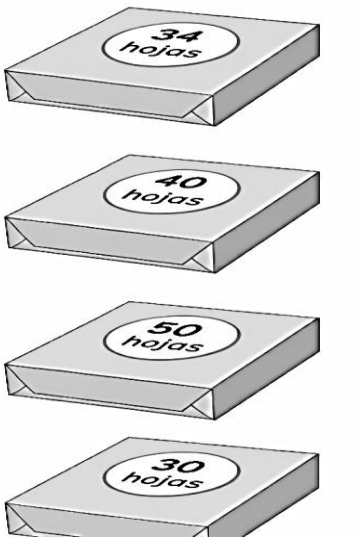

¿De qué paquete puede sacar 43 hojas de papel bond?

a 34 hojas

b 40 hojas

c 50 hojas

d 30 hojas

7 Jaime recibió de propina **un billete de S/10** como se muestra en la imagen.

Jaime compra un **libro de cuentos que cuesta S/12**. Al pagar, él dice que **recibirá S/3 de vuelto**. Si no hubo descuento en el precio ni error en el vuelto:

¿Es posible esto? Marca la respuesta correcta.

a No, porque el vuelto es S/2.00

b Sí, porque al restar recibe de vuelto S/ 3.00

c No, porque tenía un billete de S/ 10.00 y el precio del libro es S/12.00.

d Sí, porque al restar 12- 10 = 3

8 Carmen es una niña que vive en Chongoyape, ella recolecta piedritas de colores del río, para elaborar collares que luego los venderá en la feria de “Santa Catalina”. Carmen organiza las piedritas teniendo en cuenta la siguiente secuencia numérica:

27, 31, 35, 39, 43, …

¿Qué debes hacer para encontrar el número que sigue?

a Sumar 1 al 43

b Sumar 3 al 43

c Sumar 4 al 43

d Sumar 7 al 43

9 En el Mercado Modelo de Chiclayo, los comerciantes usan balanzas para pesar sus productos locales.

En un lado de la balanza se colocan tarros de miel de algarrobina (cilindros) y en el otro lado de la balanza bloques de chancaca (cubos), como se muestra en la figura.



Se observa lo siguiente:

- Todos los tarros de miel pesan lo mismo entre sí.
- Todos los bloques de chancaca pesan lo mismo entre ellos.
- La balanza está en equilibrio (ambos lados están al mismo nivel).

¿Cuántos **bloques de chancaca** pesarán lo mismo que **1 tarro de miel**?

a ■ (1 bloque)

b ■■■ (3 bloques)

c ■■■■■ (5 bloques)

d ■■■ (3 bloques)

10 Los agricultores del distrito de Pátapo usan cajas rectangulares para colocar chancaca y cajas cuadradas para colocar vasos con panela. Juan juega con fichas que representan estas cajas. El juego tiene fichas de tres tamaños diferentes, como se observa en la imagen:

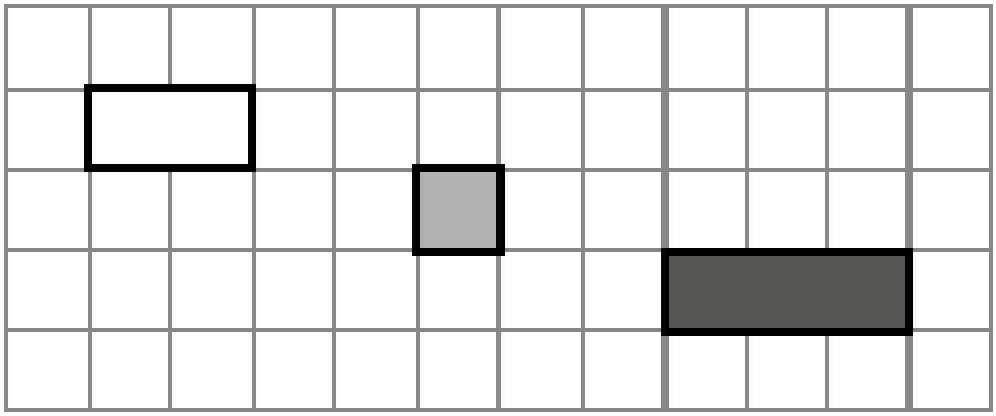

Si Juan usó: **3 fichas grises y 1 ficha negra**. ¿Cuál es la alternativa correcta?

a

b

c

d

11 En un kiosco durante la feria del Fexticum, se realiza el siguiente canje.

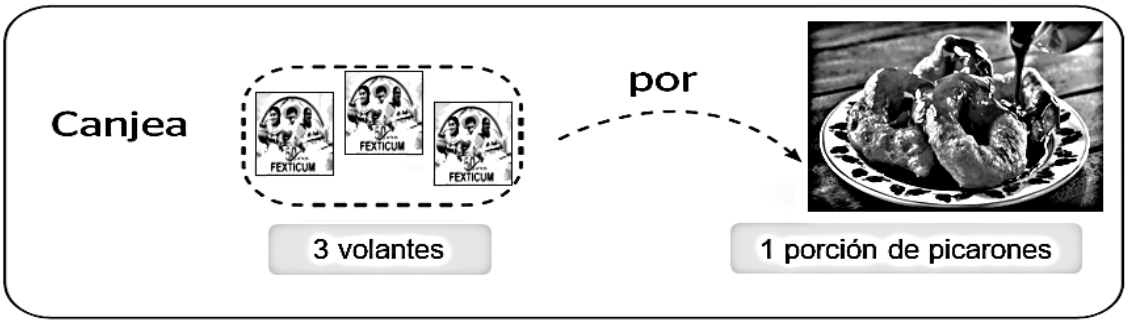

Julieta quiere canjear 4 porciones de picarones. ¿Cuántos volantes necesitará?

a 3 volantes

b 4 volantes

c 7 volantes

d 12 volantes

12 La siguiente figura se armó con diferentes piezas. ¿Cuántos rectángulos observas en la figura?

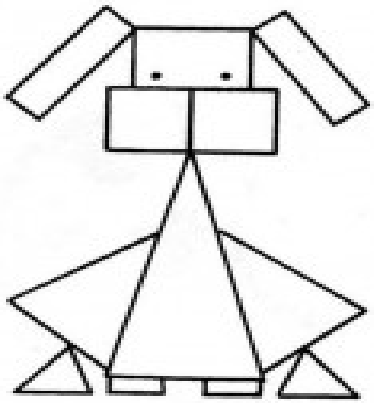

a 5 figuras

..... b ....6 figuras

c 7 figuras

d 8 figuras

13 Observa esta caja.



¿Cuál de estas figuras **SI** corresponde a la forma de las caras de la caja?

a

b

c

d 

14 Observa la figura que se ha dibujado en la cuadrícula.

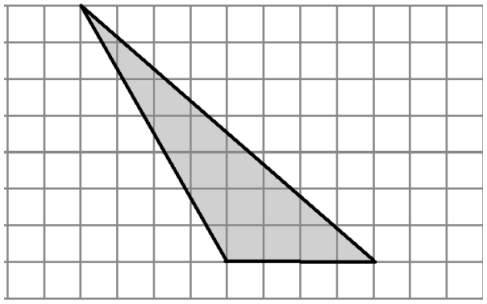

Sonia dice: “Esta figura NO es un triángulo porque es muy largo”

¿Es correcto lo que dice Sonia?

..... a Sí, porque el triángulo tiene los tres lados iguales

b No, porque el triángulo tiene tres lados, aunque estos no sean iguales.

c Sí, porque el triángulo tiene tres lados y dos deben ser iguales

..... d No, porque el triángulo tiene tres lados y todos deben ser diferentes.

15 Desde la posición que se encuentra el perro Doky, qué parte de su casa observa.



a

b



c

d

16 Observa esta lámina rectangular. En todo su contorno, se están colocando del mismo tamaño.



¿Cuántos pies se usarán en total?

a 7 pies

b 11 pies

c 14 pies

d 16 pies

17 La parte sombreada representa el plano de un terreno de cultivo que fue donado para construir una Institución Educativa, en una parte del terreno se ha propuesto construir un campo deportivo. La superficie del suelo se cubrirá con bloques de grass natural de forma rectangular del tamaño que se muestra al costado derecho del terreno.

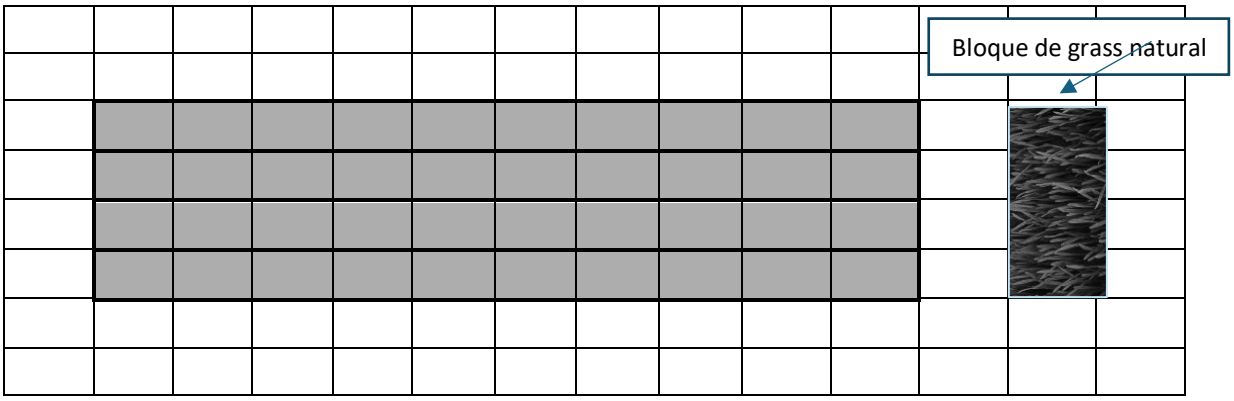

¿Cuántos bloques de grass se necesitarán para cubrir todo el piso del campo deportivo?

a) 10 Bloques de grass natural.

b) 5 Bloques de grass natural.

c) 4 Bloques de grass natural.

d) 40 Bloques de grass natural.

18 Los estudiantes de tercer grado de primaria de la IE “La Aplicación” del distrito de José Leonardo Ortiz, participan en una encuesta para decidir a qué lugar irán de paseo por el Día del Niño. La maestra lo registró de la forma como se observa en la imagen:

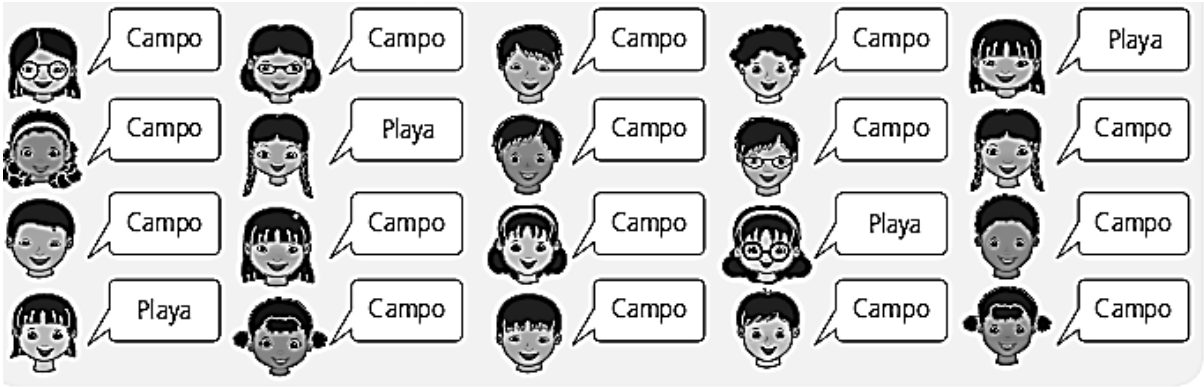

¿Cuál es el lugar preferido de los estudiantes del tercer grado para ir de paseo?

a La playa.

b El campo.

c La playa y el campo.

d Ninguno de los dos lugares.

19 José es un padre de familia muy trabajador y decide vender rosquitas de manteca en la feria de Zaña que se celebra durante una semana, para su mejor presentación las colocó en bolsas de papel y en cada una coloca 5 rosquitas.

Día	Rosquitas que vendió José en una semana
Lunes	
Martes	
Miércoles	
Jueves	
Viernes	
Total	

Cada representa 5 rosquitas.

Según el gráfico, ¿Cuántas rosquitas vendió José el día jueves?

a 10 rosquitas

b 5 rosquitas

c 30 rosquitas

d 6 rosquitas

20 María saca, sin mirar, una figura de una caja que contiene figuras de diferentes formas:



Marca lo que es **imposible** que suceda.

a Que saque un círculo

b Que saque un rectángulo

c Que saque un cuadrado

d Que saque un triángulo

Diagnóstico Integral de Aprendizajes

GOBIERNO REGIONAL DE LAMBAYEQUE
GERENCIA REGIONAL DE EDUCACIÓN