GOBIERNO REGIONAL DE LAMBAYEQUE

GERENCIA REGIONAL DE EDUCACIÓN

DIAGNÓSTICO INTEGRAL DE APRENDIZAJES

MATEMÁTICA

4°
Primaria

DISTRITO	
NOMBRE Y APELLIDOS	
I.E.	
SECCIÓN	

¿Cómo responder las preguntas del cuadernillo?

- En este cuadernillo, encontrarás preguntas en las que debes marcar con una “X” solo una respuesta.
- También encontrarás preguntas en las que tienes que realizar tus procedimientos y escribir tu respuesta.
- Hazlo de forma clara y ordenada.
- Usa solo lápiz para responder las preguntas.

Ejemplo:

1 Tenía 3 carritos. Luego, mi tío me regaló 2 carritos.
¿Cuántos carritos tengo en total?

A 2 carritos.

B 3 carritos.

C 5 carritos.

D 4 carritos.

Tienes 60 minutos
para resolver la prueba de Matemática

Ten en cuenta que:

• Debes resolver tu cuadernillo en silencio y sin mirar las respuestas de tus compañeros.
• Si tienes dudas en alguna pregunta, puedes pasar a la siguiente. Luego, si todavía tienes tiempo, puedes regresar a las preguntas que no has respondido.

¡Tú puedes!

1 Las empresas azucareras de Pomalca, Pucalá y Cayaltí registraron su producción de azúcar para organizar el envío al mercado regional. Los datos se muestran en la siguiente tabla:

Empresa	Producción (en toneladas)
Pomalca	520
Pucalá	510
Cayaltí	480

Con esta información, se desea comparar la producción de Cayaltí con la producción conjunta de las otras dos empresas.

¿Cuántas toneladas produjo Cayaltí **menos que** la producción conjunta de Pomalca y Pucalá?

a 450

b 520

c 550

d 1050

2 Silvia vive en la provincia de Chiclayo y le gusta jugar con objetos de madera, como los que elaboran los artesanos de la región. Ella sabe que los objetos de la misma forma tienen el mismo peso. Con estos objetos, Silvia consigue que las siguientes balanzas estén en equilibrio.

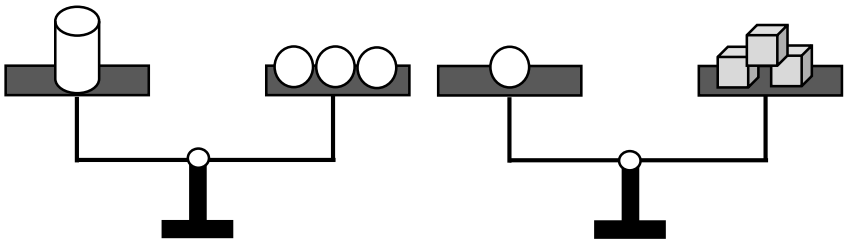

Balanza 1 **Balanza 2**

Para que la siguiente balanza esté en equilibrio, **¿Cuántos** **hay que poner en el segundo platillo?**

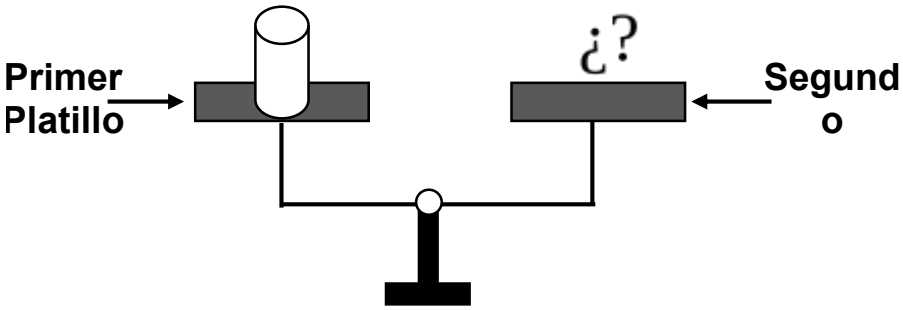

a 3

b 7

c 6

d 9

3 La siguiente tabla muestra el registro del ingreso diario de personal al museo de Sitio Huaca Rajada – Sipán

Día	Número de personas
2 de mayo	
3 de mayo	
4 de mayo	

= 50 personas

¿Cuántas personas ingresaron al museo el 4 de mayo?

a 5 personas

b 50 personas

c 250 personas

d 600 personas

4 En el terminal de Chongoyape, un inspector revisó una bolsa con fichas de colores que representaban tipos de transporte.

La bolsa contenía 4 fichas rojas y 6 fichas azules y 1 ficha amarilla, al extraer una ficha sin mirar.

¿Cuál es el evento más posible?

a Sacar ficha roja

b Sacar ficha azul

c Ambas igual

d Sacar ficha amarilla

5 En el distrito de José Leonardo Ortiz, Pablo tiene un pequeño emprendimiento de repostería donde hornea galletas artesanales para vender a sus vecinos. Para organizarlas mejor, Pablo utiliza bandejas, colocando siempre la misma cantidad de galletas en cada una.

La siguiente tabla muestra la cantidad de galletas que Pablo puede hornear según el número de bandejas que usa. Observa:

Cantidad de bandejas que usó	2	3	4	5	6	7	8
Cantidad de galletas que horneó	12	18	24	30			

Según esta información, **¿Cuántas galletas horneará Pablo en 8 bandejas?**

a 30 galletas

b 66 galletas

c 48 galletas

d 96 galletas

6 En el distrito de La Victoria, en la provincia de Chiclayo, los estudiantes observan el arco de fútbol de una losa deportiva del barrio. Dicho arco está formado por dos postes verticales, llamados A y B, y un poste horizontal, llamado C, tal como se muestra en el dibujo.

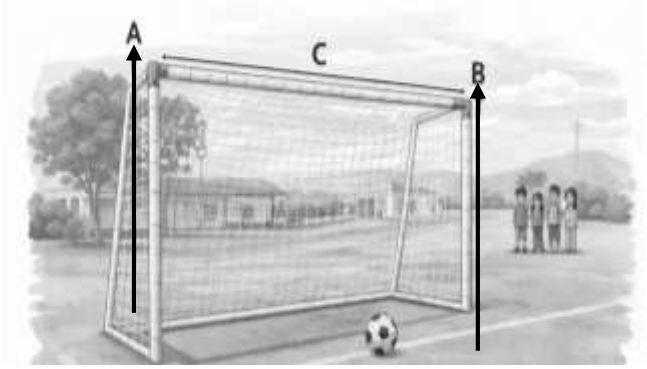

En relación con los postes del arco de fútbol, **¿Cuál de las siguientes afirmaciones es correcta?**

a A es paralelo a B

b B es paralela a C

c A es paralelo a C

d A es paralelo a B y C

7 En el distrito de Reque, Paola es una estudiante de una institución educativa que participa en un taller de dibujo y diseño urbano. Durante la clase la docente les pide representar dos figuras en una hoja cuadriculada. Ella marcó de negro el contorno de cada figura. Las dos figuras tienen la misma área. Observa:

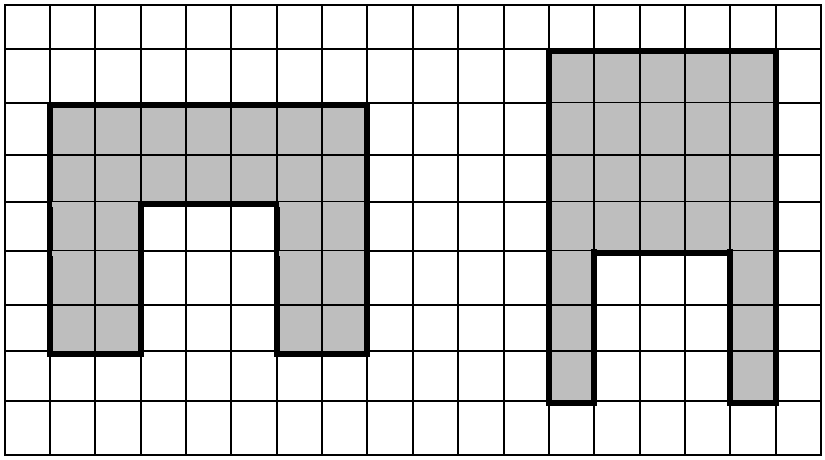

¿Por qué las áreas de estas dos figuras son iguales?

a Porque las figuras tienen la misma forma

b Porque la longitud del contorno de cada figura es la misma

c Porque las figuras contienen la misma cantidad de cuadraditos

d Porque el lado más largo de cada figura tiene 7 cuadraditos

8 En el Museo Tumbas Reales de Sipán, los artesanos mochicas decoraban sus muros con mosaicos que seguían un patrón que se repetía. En la siguiente imagen se muestra una secuencia de piezas de un mosaico mochica que decora una pared, pero una de las piezas se ha perdido. Observa

¿Cuál de las siguientes alternativas corresponde a la pieza que falta para mantener correctamente la secuencia del diseño mochica?

a

b

c

d

9 En las playas de Puerto Eten y Santa Rosa, los pescadores decoran sus redes y embarcaciones con diseños inspirados en las olas del mar. Para saber si un diseño es simétrico, doblan la figura por una línea imaginaria y observan si ambas partes coinciden exactamente.

Observa las siguientes figuras. En cada una se muestra una línea divisoria que indica que, al doblar la figura por esa línea, las dos partes coinciden, por eso son figuras simétricas:

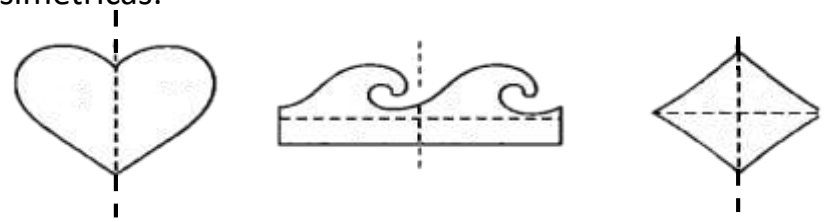

¿Cuál de las siguientes figuras **NO** se puede trazar ningún eje de simetría?

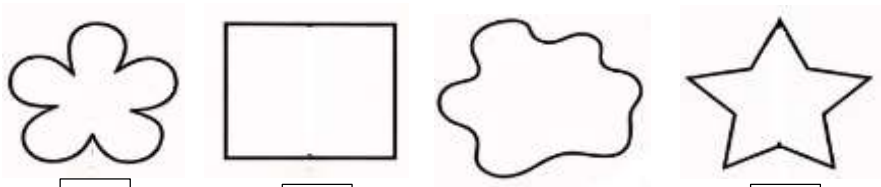

a b c b

10 La municipalidad de Nueva Arica comparó el número de pasajeros transportados por tres rutas para mejorar el servicio de transporte rural.

Las rutas B y C transportaron 50 y 45 pasajeros respectivamente, mientras que la ruta A transportó 35 pasajeros.

¿Cuántos pasajeros más transportaron las rutas B y C juntas que la ruta A?

a 40

b 50

c 60

d 70

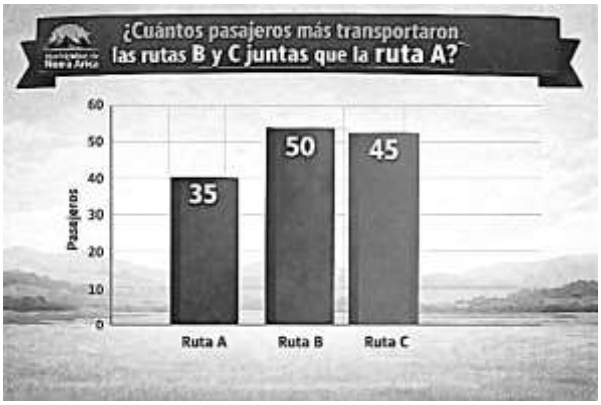

11 El Complejo Arqueológico de Pampa Grande recibe visitantes escolares y turistas. La municipalidad desea planificar mejor el servicio de guías para la próxima semana y decide analizar los registros de visitas de dos semanas consecutivas.

Día	Semana 1	Semana2
Lunes	25	27
Martes	30	29
Miércoles	28	31
Jueves	35	34
Viernes	42	45

¿Qué día presenta mayor probabilidad de recibir más visitas la próxima semana?

a Martes

b Jueves

c Viernes

d Miércoles

12 En el distrito de Nueva Arica, durante una feria comunal, los pobladores decoran carteles informativos y banderines con figuras rectangulares.

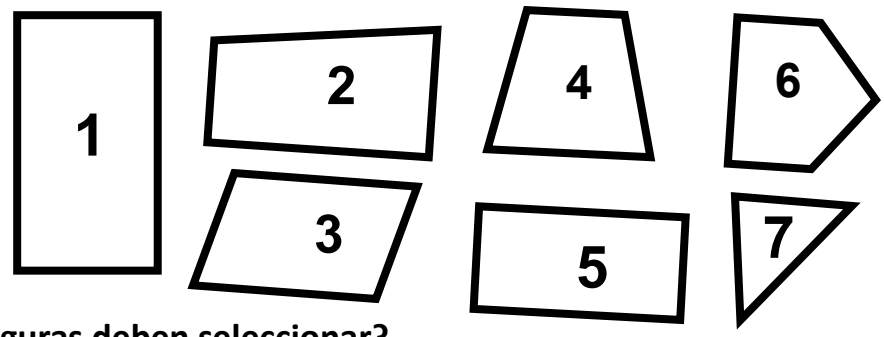

¿Qué figuras deben seleccionar?

a Las figuras 2 y 5

b Las figuras 1, 2, 3, 4 y 5

c Las figuras 1 y 5

d Las figuras 3, 4, 6 y 7

13 En un mercado del distrito de Chiclayo, una familia organiza frutas de la zona para exhibirlas en una mesa para la venta.

La familia ordena las frutas siguiendo un patrón



Ellos han ordenado en total 20 frutas.

¿Cuál será la última fruta de este ordenamiento?



a b c d

14 En el centro poblado de Capote, ubicado en el distrito de Picsi (Chiclayo), las familias parceleras se dedican al cultivo y venta de arroz, actividad propia de esta comunidad afroperuana. Una familia tenía 360 sacos de arroz para vender en el mercado local. Durante la semana vendieron 145 sacos, luego, compraron algunos sacos más para reponer su producto. Al finalizar la semana, la familia tenía 290 sacos de arroz en total. **¿Cuántos sacos de arroz compraron después de la venta?**

a 65 sacos

b 75 acos

c 85 sacos

d 95 sacos

15 En la cooperativa azucarera Pucalá se realiza un sorteo entre las familias trabajadoras del distrito. Don Jorge da tres pistas para descubrir el número del boleto ganador del saco de azúcar:

- *La cifra de las decenas es 9.*
- *La cifra de las centenas es mayor que la cifra de las unidades.*
- *Es un número menor que 500.*

¿Cuál de las siguientes tarjetas podría tener el número ganador?

a 394

b 493

c 293

d 192

16 En un barrio del distrito de La Victoria, Ricardo quiere colocar alrededor del jardín de su casa, una cerca rectangular para proteger sus plantas. El jardín mide 7 metros de ancho y 8 metros de largo. Sin embargo, hay una parte donde ya existe una pared de 7 metros, por lo que esa parte no necesita cerca.

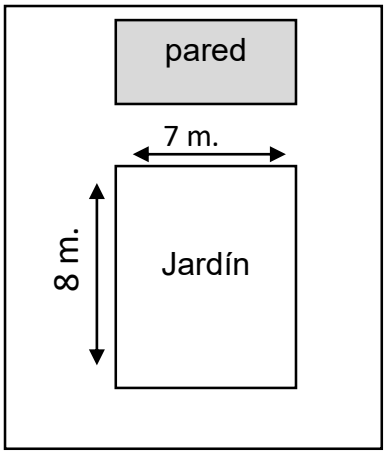

¿Cuántos metros de cerca necesita comprar María para cubrir el resto del jardín?

a 26 metros

b 21 metros

c 23 metros

d 56 metros

17 Durante una feria cultural Mochica llevado a cabo en una escuela del distrito de Monsefú. Lucía gana fichas por apoyar en la exposición sobre cerámica y textiles ancestrales. Cada cerámica o textil cuesta **6 fichas de canje**.

Lucía tiene **35 fichas en total.**

Después del canje, le **queda 5 fichas.**

¿Cuántas cerámicas o textiles canjeó Lucía?

a 4 cerámicas o textiles

b 3 cerámicas o textiles

c 5 cerámicas o textiles

d 6 cerámicas o textiles

18 En la ciudad de Chiclayo, los edificios tienen forma rectangular. Tito representa cada edificio usando una ficha rectangular. Cada ficha rectangular está dividida en 3 pisos iguales, que representan los pisos del edificio.

Durante una actividad, Tito coloca 3 fichas rectangulares sobre la mesa para representar varios edificios. Observa

Ficha rectangular →

Ficha de pisos del edificio →

Si Tito coloca 3 fichas rectangulares de la siguiente manera:

¿A cuántos pisos equivale en total las 3 fichas rectangulares que colocó Tito?

a Equivale a 3 pisos

b Equivale a 6 pisos

c Equivale a 9 pisos

d Equivale a 12 pisos

19 En un torneo de matemática entre colegios de la zona urbana de Chiclayo, Ana obtuvo 168 puntos y Bruno obtuvo 112 puntos. El jurado desea que Ana tenga 50 puntos más que Bruno, por lo que deben corregir su puntaje.

¿Cuántos puntos deben restar al puntaje de Ana para que se cumpla la indicación?

a 6 puntos

b 56 puntos

c 5 puntos

d 62 puntos

20 En una escuela del distrito de Pomalca, se organizó una campaña de lectura relacionada con la historia de la caña de azúcar y la identidad afroperuana.

- El salón de 4º A leyó 128 libros durante el mes.
- El salón de 4º B leyó 37 libros menos que el 4º A
- El salón de 4º C leyó 25 libros más que el 4º B

¿Cuántos libros leyó el salón de 4º C en total?

a 90 libros

b 116 libros

c 128 libros

d 140 libros

DIA

Diagnóstico Integral de Aprendizajes

GOBIERNO REGIONAL DE LAMBAYEQUE
GERENCIA REGIONAL DE EDUCACIÓN