GOBIERNO REGIONAL DE LAMBAYEQUE

**GERENCIA REGIONAL DE EDUCACIÓN**

# DIAGNÓSTICO INTEGRAL DE APRENDIZAJES

## MATEMÁTICA

**5°**
**Primaria**

| | |
|---|---|
| DISTRITO | |
| NOMBRESY APELLIDOS | |
| I.E. | |
| SECCIÓN | |

## ¿Cómo responder las preguntas del cuadernillo?

- En este cuadernillo, encontrarás preguntas en las que debes marcar con una “X” solo una respuesta.
- También encontrarás preguntas en las que tienes que realizar tus procedimientos y escribir tu respuesta.
- Hazlo de forma clara y ordenada.
- Usa solo lápiz para responder las preguntas.

Ejemplo:

1 Tenía 3 carritos. Luego, mi tío me regaló 2 carritos.
¿Cuántos carritos tengo en total?

**A** 2 carritos.

**B** 3 carritos.

**X** 5 carritos.

**D** 4 carritos.

Tienes 60 minutos
para resolver la prueba de matemática

Ten en cuenta que:

• Debes resolver tu cuadernillo en silencio y sin mirar las respuestas de tus compañeros.
• Si tienes dudas en alguna pregunta, puedes pasar a la siguiente. Luego, si todavía tienes tiempo, puedes regresar a las preguntas que no has respondido.

***¡Tú puedes!***

**1** Un grupo de niños de 5to grado visitó el área de conservación de Chaparri y las islas de nuestra Costa. Ellos investigaron sobre la masa de algunas especies rescatadas y compartieron estos datos:

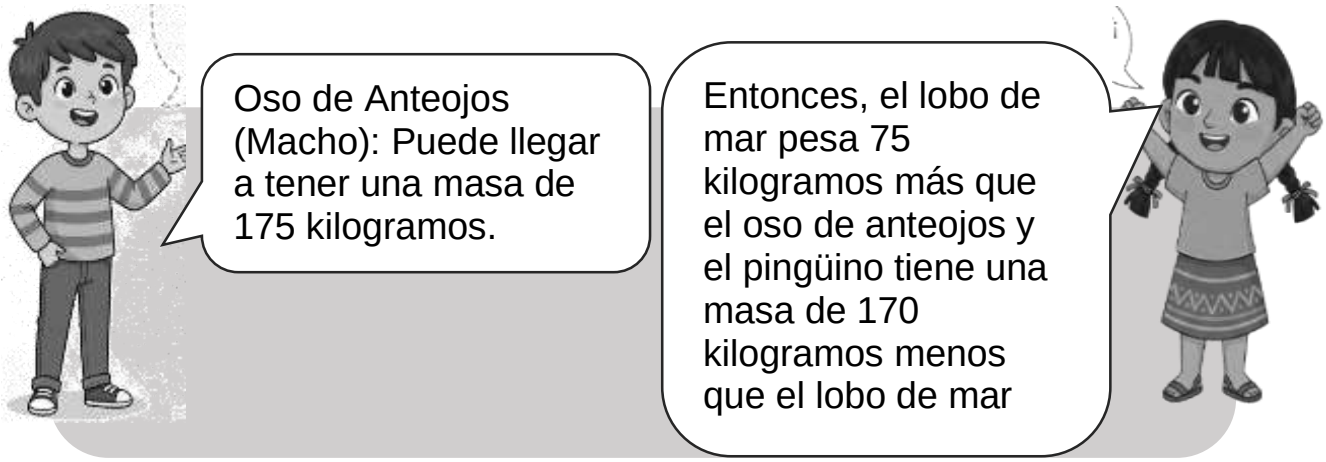


¿Cuántos kilogramos tiene el lobo de mar? y ¿Cuál es la masa del pingüino de Humboldt?

**A** Lobo de mar: 250 kg y el Pingüino: 80 kg

**B** Lobo de mar: 100 kg y el Pingüino: 250 kg

**C** Lobo de mar: 250 kg y el Pingüino: 170 kg

**D** Lobo de mar: 175 kg y el Pingüino: 75 kg

2

Dos hermanos, Siomara y Rubén, compran un regalo que cuesta S/30. Siomara puso $\frac{3}{5}$ de lo que costó ¿Cuánto de dinero puso Rubén?

**A** 16 soles

**B** 13 soles

**C** 12 soles

**D** 18 soles

3

La panadería "El Padrino" distribuye pan fortificado a las instituciones educativas para el desayuno escolar. El producto se empaca en bolsas individuales y en cajas de 100 panes cada una.

El fin de semana, empacaron 13 cajas con 100 panes en cada una, pero sobraron 48 bolsas individuales.

**¿Cuántos panes había?**

**A** 13 centenas y 48 unidades.

**B** 1 unidad de millar, 3 decenas y 48 unidades.

**C** 1 unidad de millar, 3 centenas y 48 decenas

**D** 134 centenas y 8 unidades.

4

En el Mercado Modelo de Chiclayo, cuatro comerciantes se organizaron para vender refrescos tradicionales de la región (chicha de Jora y refresco de cebada) para recaudar fondos para su asociación. Ellos ofrecen sus productos en botellas de ½ litro y de 1 litro.

Observa la información de la siguiente tabla:

| **Comerciante** | **Botellas de ½ litro** | **Botellas de 1 litro** |
|---|---|---|
| **Luis** | 10 | 5 |
| **Mari** | 7 | 3 |
| **Jesús** | 10 | 3 |
| **Dina** | 6 | 5 |

Cada botella de **½ litro** se vendió a **S/ 1** y cada botella de **1 litro** se vendió a **S/ 2**.

En total, ¿cuánto dinero juntaron los comerciantes por la venta de los refrescos?

**A** S/ 49

**B** S/ 65

**C** S/ 98

**D** S/ 90

5

En una visita a las huertas tradicionales de Monsefú que realizaron los estudiantes de 5to grado, un agricultor les comentó que para abastecer el mercado Moshoqueque de Chiclayo, necesita organizar su siembra de lechugas orgánicas de forma precisa, por lo que ha preparado un terreno con 35 surcos bien alineados. Si en cada uno de estos surcos se deben sembrar 25 plantas de lechuga, ¿cuántas plantas se necesitarán para completar toda la siembra y llevar el producto a las mesas chiclayanas?

**A** 60 plantas

**B** 245 plantas

**C** 755 plantas

**D** 875 plantas

6 En una institución educativa de Picsi, los estudiantes observan el peso que registra la balanza:

¿Cuál de las siguientes expresiones representa la situación presentada en la balanza?

**A** $X + 3 = 6$

**B** $X + 3 > 6$

**C** $X – 3 = 6$

**D** $X + 3 < 6$

**7** En el distrito de Ciudad Eten, los artesanos decoran vasijas de barro. Un artesano está pintando una secuencia decorativa en el borde de un gran cántaro.

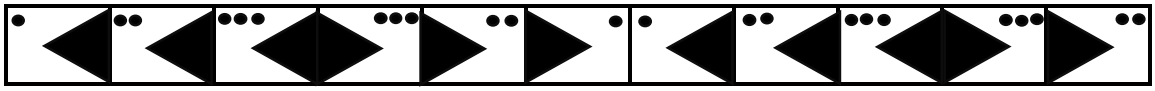

Si el artesano continúa pintando siguiendo estrictamente el mismo orden hasta completar más figuras, **¿qué imagen pintará en la posición número 20 de la secuencia?**

**A**

**B**

**C**

**D**

**8** Pedro trabaja en un restaurante típico de Chiclayo, él prepara el tradicional arroz con pato. Para que la receta salga bien, mide el arroz usando tazas y bolsas especiales.

Observa la equivalencia:

Pedro necesita 15 tazas de arroz para cocinar el arroz con pato del almuerzo del domingo. ¿Cuántas bolsas de arroz usará?

**A** 3 bolsas.

**B** 1 bolsas.

**C** 2 bolsas.

**D** 5 bolsas.

9 En una fábrica de King Kong en Lambayeque, se utiliza esta balanza para controlar el peso de los insumos. Se sabe que todos los bloques de dulce de piña (cubos) tienen la misma cantidad de gramos.

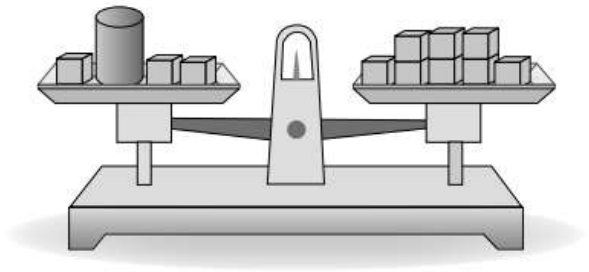

¿Cuántos bloques de dulce de piña se necesitan para tener la misma cantidad de gramos que el molde de manjarblanco (cilindro)?

A 11 bloques.

B 8 bloques.

C 6 bloques.

D 5 bloques.

10 En la fábrica de azúcar de Pomalca, los trabajadores envasan el azúcar en sacos grandes y en bolsas familiares para su distribución. Observa la equivalencia de peso que se muestra en el almacén:

Si un camión repartidor necesita llevar el equivalente a 20 bolsas pequeñas de azúcar para una tienda en el centro de Chiclayo, ¿cuántos sacos grandes debe cargar el trabajador?

**A** 2 sacos.

**B** 4 sacos

**C** 5 sacos

**D** 10 sacos

**11** ¿Cuál es el número de asiento de Juan?, si el profesor observa que Juan está a su derecha y en la segunda fila:

**A** Asiento 3

**B** Asiento 4

**C** Asiento 5

**D** Asiento 6

**12** En dos parques, el espacio destinado para juegos tiene las siguientes formas y medidas:

¿Cuál de los espacios tiene mayor área?

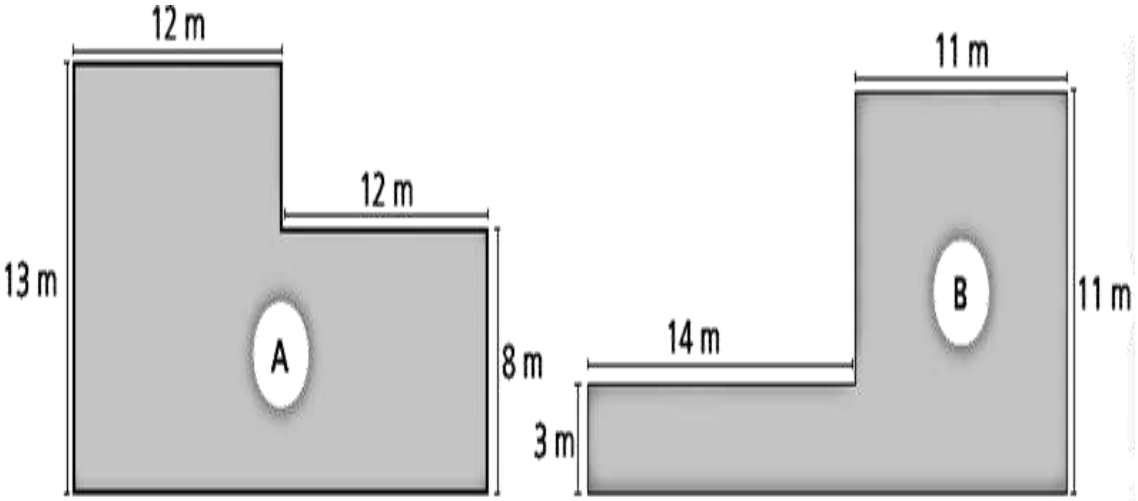


**A** La figura A

**B** La figura B

**C** No se puede calcular.

**D** Ambas tienen la misma área.

13 En la siguiente figura muestra el recorrido que realiza un grupo de atletas durante una competencia deportiva.

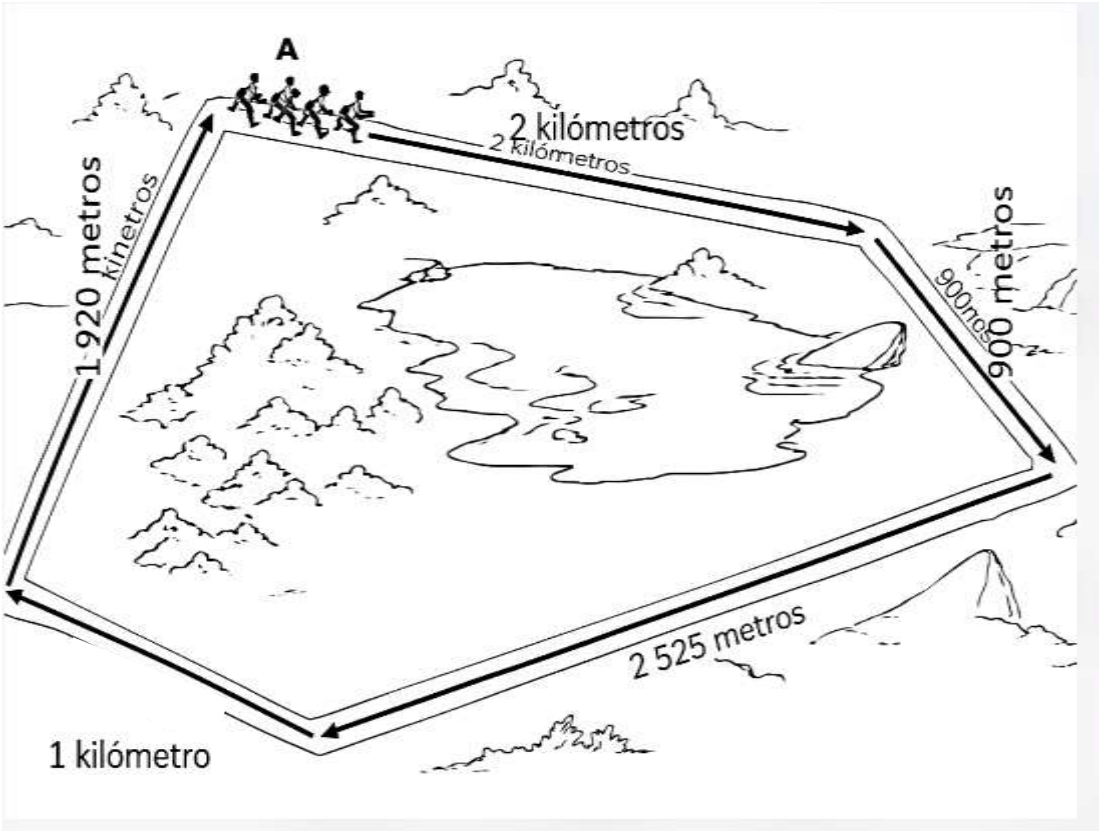


¿Cuál es el perímetro del área recorrida?

**A** 8 345 metros.

**B** 7 345 metros.

**C** 6 545 metros

**D** 5 645 metros

14

La familia Fiestas ha decidido cumplir su sueño de comprar un terreno cerca al malecón de Pimentel para construir una casa de verano. Un agente inmobiliario les ofrece cuatro opciones de terrenos con diferentes formas, ubicados en una zona de expansión del balneario.

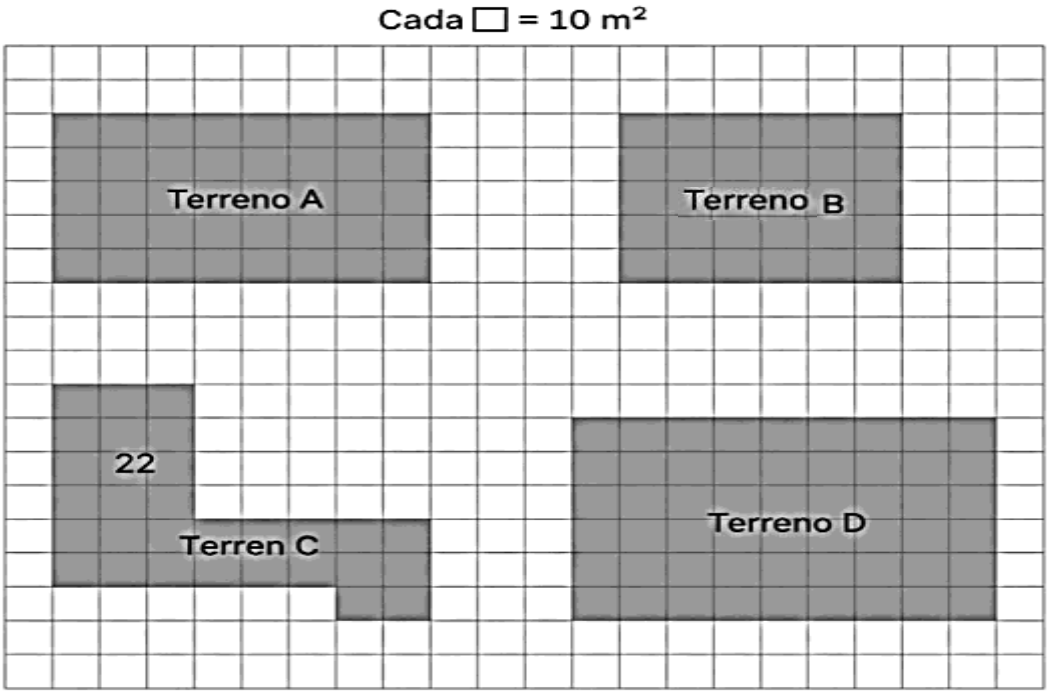


a) Terreno A
b) Terreno C
c) Terreno B
d) Terreno D

**Instrucción:**

Ellos desean comprar el terreno que tenga la **mayor superficie (área)** para tener espacio para una piscina y zona de parrilla. Observa las medidas en la cuadrícula:

- **Terreno A:** Un rectángulo de 3 cuadraditos de ancho por 6 de largo.
- **Terreno B:** Un cuadrado de 5 cuadraditos por 5 cuadraditos.
- **Terreno C:** Una forma de "L" que ocupa un total de 22 cuadraditos.
- **Terreno D:** Un rectángulo de 4 cuadraditos de ancho por 7 de largo.

**Pregunta:**

¿Cuál de los terrenos deberían escoger los Fiestas, si buscan el de mayor superficie?

**A** Terreno A

**B** Terreno B

**C** Terreno C

**D** Terreno D

**15** En el Paseo Yortuque, Delicia observó una mariposa y decidió dibujar una igual para decorar su cuarto. Ella solo ha dibujado la mitad, como se ve en la imagen:

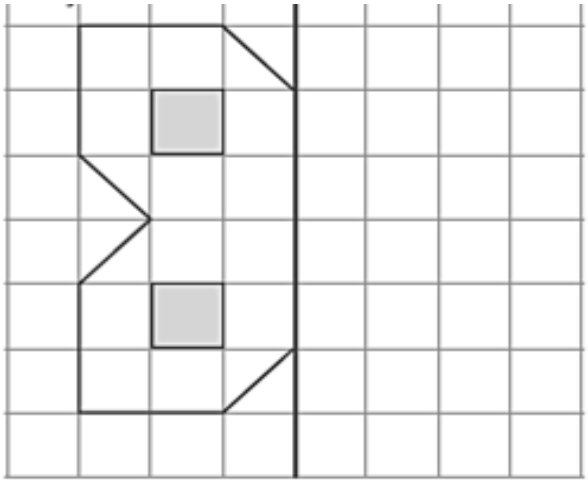

Si Delicia quiere completar su dibujo para que sea simétrico, ¿qué imagen debe seleccionar?

**A**

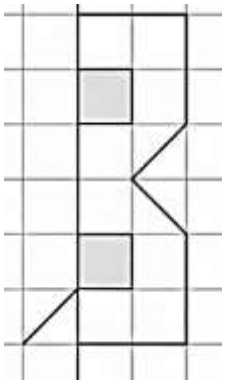

**B**

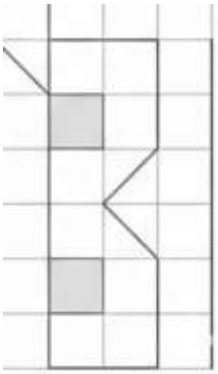

**C**

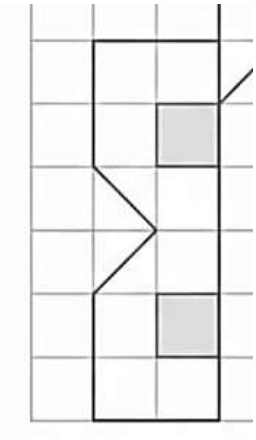

**D**

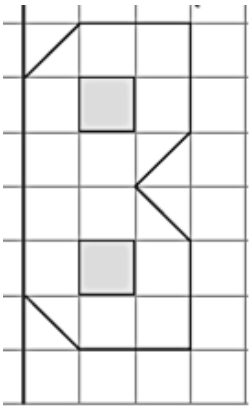

16 María tiene una caja con dulces típicos de Chongoyape para compartir con sus amigos. En la caja hay alfajores de maicena y alfajor de chocolate.



**¿Qué se puede afirmar?**

**A** Es imposible que saque un alfajor de maicena.

**B** Es seguro que saque un alfajor de chocolate.

**C** Es posible que saque un alfajor de chocolate.

**D** Es seguro que saque un alfajor de durazno.

17

En esta campaña escolar Rocío vendió cartucheras escolares en su bodega. Para un mejor control de sus ventas, ella las registró en la siguiente tabla.

| Día | Cantidad de cartucheras |
|---|---|
| Lunes | 25 |
| Martes | 30 |
| Miércoles | 24 |
| Jueves | 29 |
| Viernes | 33 |
| Sábado | 40 |
| Domingo | 50 |

¿Cuántas cartucheras escolares vendió en promedio durante la semana?

**A** 30 cartucheras

**B** 31 cartucheras

**C** 32 cartucheras

**D** 33 cartucheras

**18** Los estudiantes de primaria de diversas instituciones educativas de Chiclayo participaron en las eliminatorias de atletismo. El profesor de Educación Física ha presentado el siguiente gráfico que muestra cuántos clasificados tuvo cada colegio (I.E) para la gran final.

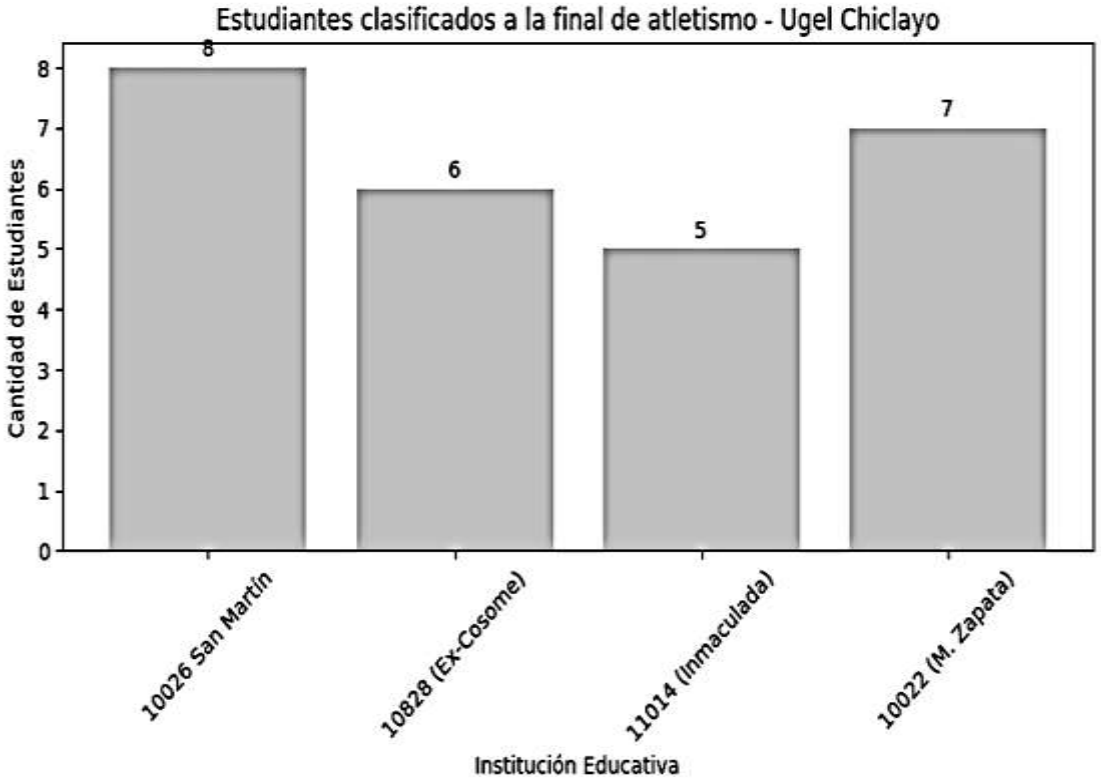


**-** ¿Cuál de las siguientes tablas de frecuencia representa **exactamente** la misma información que el gráfico de barras?

| A | I.E. | Cantidad de estudiantes |
|---|---|---|
| | 10026 San Martín | 8 |
| | 10828 (Ex-Cosome) | 6 |
| | 11014 (Inmaculada) | 5 |
| | 10022 (M. Zapata) | 7 |

| B | I.E. | Cantidad de estudiantes |
|---|---|---|
| | 10026 San Martín | 6 |
| | 10828 (Ex-Cosome) | 8 |
| | 11014 (Inmaculada) | 7 |
| | 10022 (M. Zapata) | 5 |

| C | I.E. | Cantidad de estudiantes |
|---|---|---|
| | 10026 San Martín | 7 |
| | 10828 (Ex-Cosome) | 6 |
| | 11014 (Inmaculada) | 5 |
| | 10022 (M. Zapata) | 7 |

| D | I.E. | Cantidad de estudiantes |
|---|---|---|
| | 10026 San Martín | 5 |
| | 10828 (Ex-Cosome) | 8 |
| | 11014 (Inmaculada) | 7 |
| | 10022 (M. Zapata) | 6 |

**19** En la IE 10834 Santa Ana, se abrirán talleres según los gustos de los estudiantes. Las preferencias de 5.º y 6.º grado se registraron en estas libretas:

De acuerdo con los datos recogidos, si únicamente se pueden abrir los talleres que tengan la mayor cantidad total de estudiantes interesados, ¿cuál de estos talleres debería abrirse sin falta?

**A** Música

**B** Teatro

**C** Danza

**D** Cocina

**20** En el marco del proyecto lector "Leemos en comunidad", se encuestó a los estudiantes de una escuela sobre sus preferencias de lectura. Se registró algunos datos en la siguiente tabla.

**Lecturas preferidas por estudiantes según género**

| Lecturas prefendas / Género | Niñas | Niños |
|---|---|---|
| Acción | 9 | 6 |
| Comedia | | |
| Romance | | |
| Ciencia | 8 | 7 |
| Historia | 3 | 5 |
| Terror | 4 | 6 |
| Total | | |

Para asegurar que el proyecto lector sea un éxito y capte el interés de la mayoría de los estudiantes ¿Què lecturas debe priorizarse?

**A** Acción y terror

**B** Comedia y Ciencia

**C** Acción y Ciencia

**D** Terror e Historia

# Diagnóstico Integral de Aprendizajes

GOBIERNO REGIONAL DE LAMBAYEQUE

**GERENCIA REGIONAL DE EDUCACIÓN**