GOBIERNO REGIONAL DE LAMBAYEQUE

GERENCIA REGIONAL DE EDUCACIÓN

DIAGNÓSTICO INTEGRAL DE APRENDIZAJES

MATEMÁTICA

6°
Primaria

PROVINCIA	
I.E.	
NOMBRES Y APELLIDOS	
SECCIÓN	

¿Cómo responder las preguntas del cuadernillo?

- En este cuadernillo, encontrarás preguntas en las que debes marcar con una “X” solo una respuesta.
- También encontrarás preguntas en las que tienes que realizar tus procedimientos y escribir tu respuesta.
- Hazlo de forma clara y ordenada.
- Usa solo lápiz para responder las preguntas.

Ejemplo:

1 Tenía 3 carritos. Luego, mi tío me regaló 2 carritos.
¿Cuántos carritos tengo en total?

A 2 carritos.

B 3 carritos.

X 5 carritos.

D 4 carritos.

Tienes 60 minutos
para resolver la prueba de Matemática

Ten en cuenta que:

• Debes resolver tu cuadernillo en silencio y sin mirar las respuestas de tus compañeros.
• Si tienes dudas en alguna pregunta, puedes pasar a la siguiente. Luego, si todavía tienes tiempo, puedes regresar a las preguntas que no has respondido.

¡Tú puedes!

“La escuela que inspira”

1 Angy es una niña de 12 años, vive en Sipán, allí tiene una piscigranja y necesita comprar 1990 kg de alimento balanceado para las tilapias. El tipo de alimento que utiliza para sus peces solo se vende en bolsas de 50 kg. ¿Cuántas bolsas de alimento balanceado debe comprar Angy?

a 199 bolsas.

b 50 bolsas.

c 30 bolsas.

d 40 bolsas.

2 Martha fue a Plaza Vea, a comprar frutas. Ella compró naranjas y manzanas. Las colocó en una bandeja. Observa:



¿Qué parte del total de frutas de la bandeja son naranjas?

a $\frac{5}{7}$

b $\frac{8}{13}$

c $\frac{1}{13}$

d $\frac{7}{13}$

3 En la biblioteca de la institución educativa n° 10005 hay 15 libros de cuentos.

La directora decidió comprar 2 cajas más de libros, y en cada caja vienen 10 libros.

¿Cuántos libros de cuentos hay ahora en total en la biblioteca?:

a 35 b 170 c 150 d 90

4 Las siguientes imágenes muestran la cantidad de dinero que tienen cuatro estudiantes de sexto grado en una IE de Chiclayo.

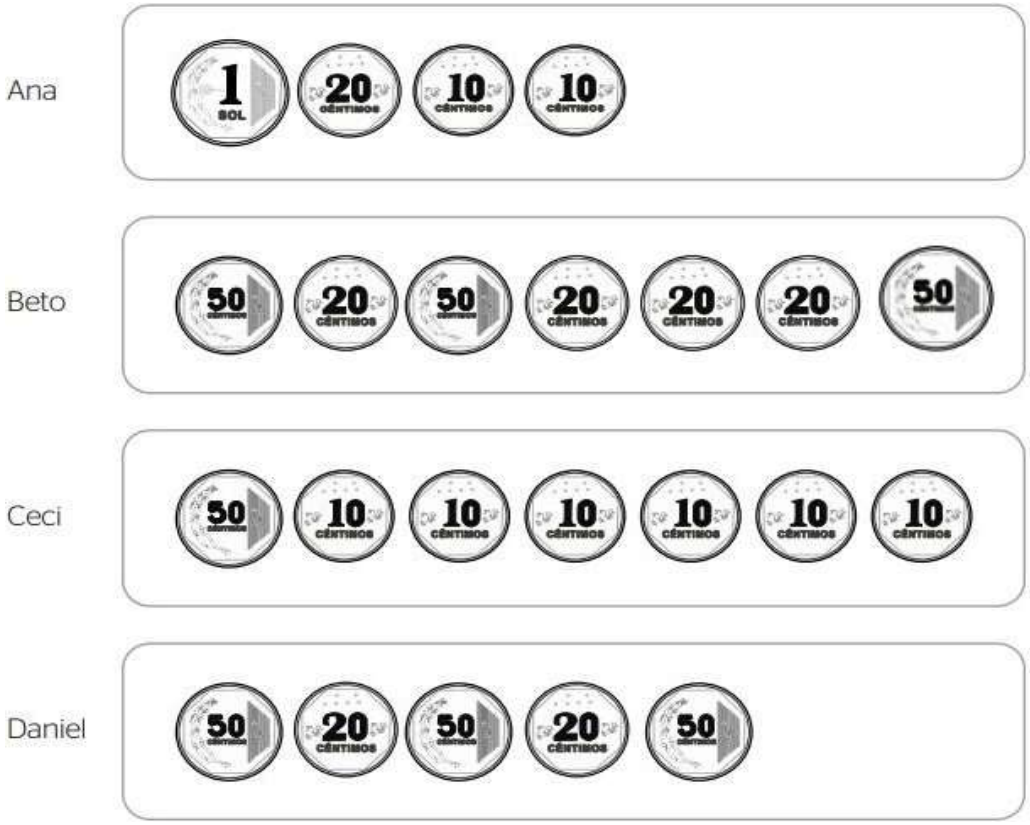

¿A qué estudiante le alcanza el dinero para comprar un lapicero que cuesta S/2,30?

a Danie b Ana c Ceci d Beto

5 En la tienda SODIMAC, Rocío compró dos varillas de madera. Una mide 2m de largo y la otra 1,3m de largo. Ella afirma lo siguiente: “Voy a utilizar primero la varilla de madera de 2m porque es la más corta de las dos”.

¿Cuál de las siguientes alternativas es correcta?

a Rocío tiene razón, porque 2 m es menor que 1,3 m.

b Rocío tiene razón, porque ambas varillas miden lo mismo.

c Rocío no tiene razón, porque 1,3 m es menor que 2 m.

d Rocío no tiene razón, porque 2 m y 1,3 m no se pueden comparar.

6 Antonio va a preparar tortitas de choclo para venderlas en el mercado Moshoqueque. Él tenía 800 g de choclo molido, pero esa cantidad no era suficiente. Por eso, fue a comprar 1 kg y medio de choclo molido. Luego de la compra, ¿qué cantidad de choclo molido tiene Antonio en total?

a. 1kg y 300 g

b. 2 kg y 300 g

c. 2 kg y 500 g

d. 1 kg y 500 g

7 Don Mariano es un pescador que vive en Puerto Eten. Una tarde, luego de su faena de pesca, a don Mariano le quedó cierta cantidad de pescado fresquito en una cesta. Vendió ¾ kg de pescado y le quedó ½ kg.

¿Qué cantidad de pescado tenía don Mariano en la cesta al inicio?

a 5/4 kg de pescado

b 4/6 kg de pescado

c 2/2 kg de pescado

d 1/4 kg de pescado

8 Como es sabido, en Zaña se preparan riquísimos dulces. En su puesto, don Juan vende tres cajitas de membrillo por S/. 5. Su hija, le propuso elaborar la siguiente tabla para calcular la cantidad de dinero que tendría que cobrar según la cantidad de cajitas de membrillo que venda.

Cantidad de cajitas						
Dinero por cobrar (S/.)						

En una tarde, don Juan llegó a vender una docena y media de cajitas de membrillo.
¿Cuánto dinero obtuvo por esa venta?

a S/. 60

b S/. 30

c S/. 20

d S/. 18

9 **Los ramos de Doña Eloísa en la "Ciudad de las Flores"**

Doña Eloísa vive en Monsefú. En su hermoso jardín cultiva pompones, rosas y claveles. Para el fin de semana, preparó 56 ramos de flores para venderlos en su puesto del Mercado Modelo de Chiclayo.

Antes de salir, un vecino le hizo un pedido de último minuto y ella le vendió 8 ramos ahí mismo en su casa. El resto de los ramos los acomodó con mucho cuidado en 4 cajas para que lleguen frescos a la ciudad, poniendo la misma cantidad de ramos en cada una.

¿Cuántos ramos de flores colocó Doña Eloísa en cada caja?

a 12 ramos de flores.

b 14 ramos de flores.

c 16 ramos de flores.

d 22 ramos de flores.

10 En la Institución Educativa emblemática "San José" de la ciudad de Chiclayo, un grupo de estudiantes está formando brigadas para cuidar el medio ambiente de su barrio. La primera semana, **4 estudiantes** participaron en la brigada. La segunda semana, participaron **8 estudiantes**. La tercera semana, participaron **16 estudiantes** y la cuarta semana, **32 estudiantes**. Esto muestra que cada semana se suman más estudiantes y el número se va ampliando.

¿Qué se puede hacer para encontrar el número de estudiantes que participarán la siguiente semana?

a Sumar 4 al número 32.

b Sumar 8 al número 32.

c Multiplicar por 8 al número 32.

d Multiplicar por 2 al número 32.

11 **En el distrito de Pimentel, muchas familias viven de la pesca y saben que, para tener fuerza y energía, es importante alimentarse bien. Pedro es un joven pescador que está entrenando para participar en las actividades del puerto por su aniversario. Para aumentar su fuerza, sigue una dieta especial para subir de peso.**

Pedro anotó su peso durante siete semanas en la siguiente tabla:

Semana	**1.ª**	**2.ª**	**3.ª**	**4.ª**	**5.ª**	**6.ª**	**7.ª**
Peso (kg)	48	49	52	51	53	51	52

Según esta información:

¿Entre qué semanas Pedro subió más de peso?

a Entre la 1.ª y la 2.ª

b Entre la 2.ª y la 3.ª

c Entre la 4.ª y la 5.ª

d Entre la 6.ª y la 7.ª

12 En la mancomunidad de Línea Dulce, los estudiantes de una Institución Educativa de Pomalca están organizando la venta de dulces típicos para una actividad escolar.

Cada estudiante debe preparar **2 bandejas de dulces** para la venta, y además tienen que llevar **6 cajas adicionales** para presentar en la feria.

Si el total de dulces que deben llevar para la feria es **38**, ¿cuántas bandejas de dulces debe preparar cada estudiante para cumplir con este total?

La expresión matemática para encontrar la cantidad de bandejas es:

$$2 \times \square + 6 = 38$$

Pregunta:

¿Qué número debe escribirse en el recuadro para que la igualdad sea correcta?

a 13

b 16

c 22

d 30

13 En el distrito de **Monsefú**, conocido por sus hermosos tejidos artesanales, Corina y su familia quieren abrir un pequeño restaurante para que los turistas que llegan a comprar mantas, bolsos y sombreros típicos también puedan probar comida tradicional.

Corina ya tiene el terreno donde construirá su restaurante. La forma del terreno es irregular, como se muestra en el dibujo, y está dividido en cuadritos que representan metros.

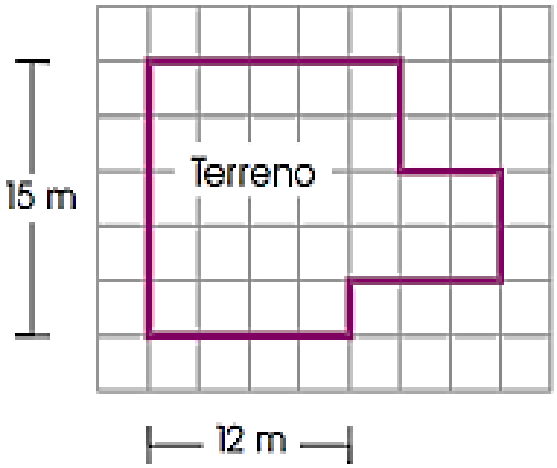

Corina quiere **cercar todo el contorno del terreno** para proteger su construcción y delimitar bien el espacio.

¿Cuántos metros de cerco necesitará Corina para rodear todo su terreno?

a 24 m

b 27 m

c 72 m

d 180 m

14 Durante la celebración del **Festival de la Marinera Norteña en Chiclayo**, se instalará una plataforma rectangular para la presentación de danzas típicas.

La plataforma mide **12 metros de largo** y **6 metros de ancho**.

Un estudiante afirma lo siguiente:

"Si duplicamos el largo de la plataforma y mantenemos el mismo ancho, el área también se duplicará".

¿Cuál de las siguientes alternativas es correcta?

a Sí, es correcta, porque al duplicar el largo, el área también se duplica.

b Sí, es correcta, porque el ancho no influye en el área.

c No, es correcta, porque el área solo depende del ancho.

d No, es correcta, porque el área se mantiene igual, aunque cambie el largo.

15 José David observa la parte superior de una caja que está en la mesa.

¿Cuál de las siguientes es la forma de la cara de la caja que ve José David?

a 

b 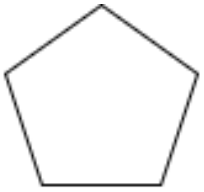

c

d 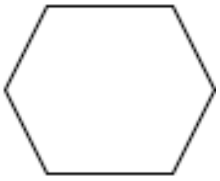

16 Román un niño de sexto grado de una Institución Educativa de José Leomardo Ortiz armará una caja con una cara con forma de pentágono, Observa:

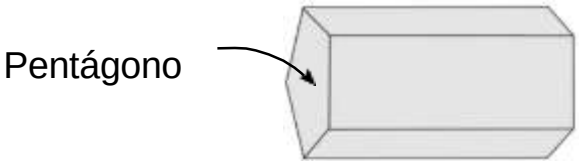

¿Con cuál de las siguientes plantillas se puede armar esta caja?

a

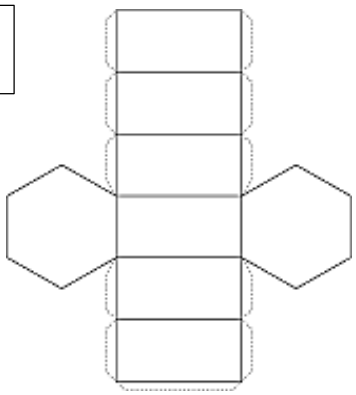

b

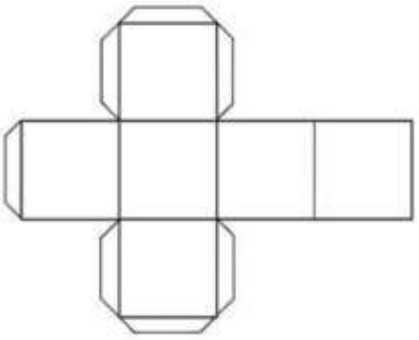

c

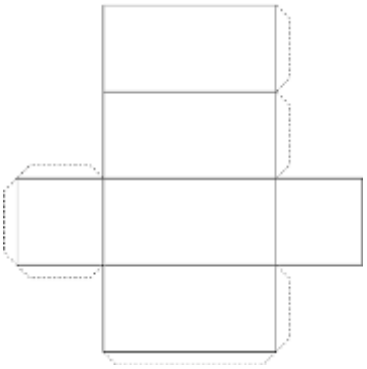

d

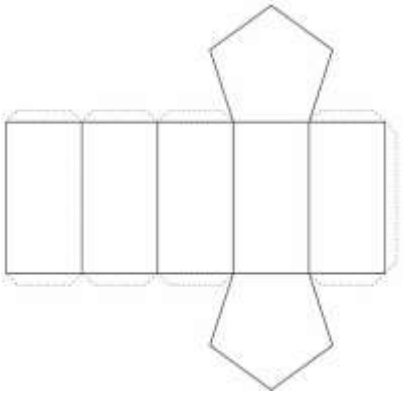

17 Durante la celebración del Festival del “Chancho al Palo” en Chiclayo, la municipalidad organiza una feria gastronómica en el parque principal.

Para ello, se instalarán dos espacios decorativos:

Un escenario principal en forma de rectángulo, que mide 12 m de largo y 8 m de alto.

Una zona de exhibición de danzas típicas en forma de cuadrado, cuyo lado mide 9 m.



¿Cuál es el área del escenario principal y cuál es el área de la zona de danzas típicas?

a Escenario principal: 96 m² — Zona de danzas típicas: 81 m²

b Escenario principal: 40 m² — Zona de danzas típicas: 36 m²

c Escenario principal: 96 m² — Zona de danzas típicas: 36 m²

d Escenario principal: 20 m² — Zona de danzas típicas: 81 m²

18 Luisa es una estudiante del distrito de Picsi (Capote) y, junto con sus amigas del sexto grado, está organizando la presentación de un baile artístico para celebrar el aniversario de la provincia de Chiclayo. Para su presentación, el grupo ha decidido usar vestimentas de diferentes tonalidades, donde cada una representa un elemento cultural del baile:

- Algunas bolas representan la energía del baile.
- Otras simbolizan la naturaleza de la región.
- Otras simbolizan la paz.
- Algunas representan la alegría de la celebración.
- Finalmente, hay bolas que representan la tonalidad principal del vestuario, que permitirá al grupo destacar en la coreografía central del baile.

Las vestimentas se elegirán al azar, utilizando tres cajas (A, B y C) que contienen bolas de distintos tipos. Sin mirar, Luisa sacará una sola bola de la caja que elija.

Luisa gana el juego si obtiene una bola que represente la tonalidad principal del vestuario en la presentación por el aniversario de Chiclayo.

Antes de elegir, Luisa observa la cantidad y los colores de bolas que hay en cada caja:

Caja A **Caja B** **Caja C**

¿Qué caja debe elegir Luisa para tener la mejor oportunidad de ganar el juego y asegurar el vestuario principal para la presentación por el aniversario de la provincia de Chiclayo?

a La Caja A, porque tiene la misma cantidad de bolas negras y blancas.

b La Caja B, porque contiene bolas de muchos tipos diferentes.

c Todas las cajas, porque en todas se puede obtener una bola negra.

d La Caja C, porque tiene mayor cantidad de bolas negras que blancas.

19 La siguiente tabla muestra los lugares visitados en la localidad por un grupo de estudiantes de sexto grado de primaria.

Lugares visitados de preferencia por los estudiantes de 6° grado

Lugares visitados	Cantidad de estudiantes
Huaca Rajada	18
Huaca “Bola de Oro”	12
Reserva Chaparrí	5
Catarata “Velo de novia”	15
Laguna Cartagena	20
Paseo Yortuque	26

¿Cuál fue el segundo lugar más visitado por los estudiantes?

Paseo Yortuque

a Laguna Cartagena

b Huaca Rajada

c Huaca “Bola de Oro”

d Paseo Yortuque

20 ¿Cuál fue el lugar que recibió **más visitas que la** Catarata Velo de Novia, pero **menos visitas que la Laguna Cartagena**?

a Laguna Cartagena

b Huaca Sipán

c Huaca Rajada

d Reserva Chaparrí

DIA

Diagnóstico Integral de Aprendizajes

GOBIERNO REGIONAL DE LAMBAYEQUE

GERENCIA REGIONAL DE EDUCACIÓN